Nama	
Kelas	
No. Absen	

Langkah Pengerjaan

1. Isilah Nama, Kelas, dan No. Absen.
2. Kerjakan soal sesuai perintahnya.
   - Untuk pilihan ganda, klik pada lingkaran huruf di depan jawaban yang benar.
   - Untuk pilihan ganda kompleks jawablah dengan mencentang semua jawaban yang benar.
3. Pastikan semua jawaban sudah kamu isi.
4. Setelah semua soal selesai kamu jawab, Save jawabanmu.
5. Kirimkan kepada gurumu melalui WhatsApp atau email.

Prediksi Soal TKA 2

Setiap Soal Bernilai 1 poin.

A. Pilihan Ganda

Pilihlah salah satu jawaban yang benar!

1. Tasya mempunyai selembar kertas berbentuk persegi panjang. Kertas tersebut dilipat menjadi tiga bagian sama besar. Selanjutnya, dua dari tiga lipatan diberi warna.



Kertas tersebut kembali dilipat menjadi lima bagian sama besar. Selanjutnya, satu dari lima lipatan diberi arsiran.

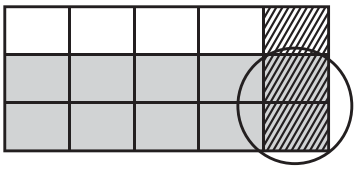

Bagian yang dilingkari memuat warna dan arsiran. Operasi pembagian yang sesuai kegiatan tersebut adalah ....

a. $\frac{2}{5} : 3 = \frac{2}{15}$

b. $\frac{2}{5} : 5 = \frac{2}{25}$

c. $\frac{2}{3} : 3 = \frac{2}{9}$

d. $\frac{2}{3} : 5 = \frac{2}{15}$

2. 

Amati gambar di samping!
Bentuk desimal untuk menyatakan apel yang berada di piring adalah ....

a. 0,4

b. 0,5

c. 0,6

d. 0,7

3. Pak Andi akan membeli cat tembok seharga Rp427.500,00. Ternyata, Pak Andi hanya membawa uang dua lembar seratus ribuan, empat lembar lima puluh ribuan, dua lembar sepuluh ribuan, dan selembar lima ribuan. Kekurangan uang Pak Andi adalah ....

a. Rp4.300,00

b. Rp2.500,00

c. Rp1.500,00

d. Rp1.000,00

4. Amati pembagian berikut!

91 : 7

Berikut diberikan pernyataan tentang hasil baginya.
(1) Nilai tempat satuan ditempati angka ganjil.
(2) Nilai tempat satuan ditempati angka genap.
(3) Nilai tempat puluhan ditempati angka ganjil.
(4) Nilai tempat puluhan ditempati angka genap.
Pernyataan yang benar adalah ....

a. (1) dan (3)

b. (1) dan (4)

c. (2) dan (3)

d. (2) dan (4)

5. Bima memiliki sebatang bambu panjangnya $4\frac{1}{4}$ m. Bambu tersebut dipotong Bima sepanjang $1\frac{1}{2}$ m. Sisa bambu dipotong menjadi 11 bagian sama panjang. Panjang setiap potong bambu milik Bima adalah ... m.

a. $\frac{1}{2}$

b. $\frac{1}{3}$

c. $\frac{1}{4}$

d. $\frac{1}{8}$

6. Suatu rangkaian lampu hias terdiri atas lampu merah, hijau, dan kuning. Lampu merah menyala setiap 15 detik. Lampu hijau menyala setiap 20 detik. Lampu kuning menyala setiap 25 detik. Ketiga lampu tersebut menyala bersama-sama pada pukul 09.15. Ketiga lampu tersebut akan menyala bersama-sama lagi pada pukul ....

a. 09.20

b. 09.30

c. 09.45

d. 10.05

7. Amati bangun datar berikut!



Ciri-ciri yang tidak sesuai dengan bangun datar tersebut adalah ….

a. mempunyai tiga sumbu simetri

b. sisi yang berhadapan saling sejajar

c. sisi yang berhadapan sama panjang

d. diagonalnya saling membagi dua sama panjang

8. 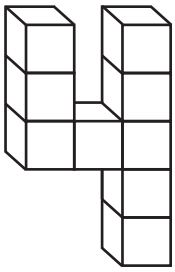

Amati Gambar di samping!

Toni menyusun beberapa kubus hingga membentuk angka 4 seperti gambar di samping. Toni ingin mengubah angka 4 tersebut menjadi huruf H. Banyak kubus tambahan yang dibutuhkan Toni adalah ....

a. 1

b. 2

c. 3

d. 4

9. Beberapa kubus disusun hingga membentuk bangun ruang berikut.

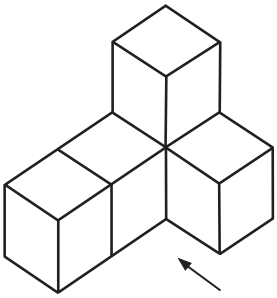

Tampilan bangun ruang tersebut ketika dilihat dari arah sesuai tanda panah adalah ....

a. 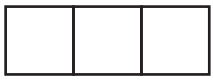

b. 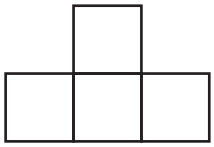

c. 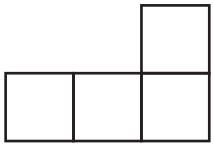

d. 

10. Niko mempunyai dua utas pita berbeda warna. Ada pita berwarna putih dan merah. Panjang pita berwarna putih adalah 4 m. Adapun panjang pita berwarna merah adalah 375 cm. Pernyataan yang tepat adalah ...

a. pita warna putih merupakan pita terpendek

b. jumlah pita Niko jika digabungkan adalah 379 cm

c. selisih kedua pita Niko adalah 25 cm

d. pita warna merah 15 cm lebih panjang dari pita warna putih

11. Padma mempunyai kain sepanjang 2 m 10 cm. Saat pergi ke toko kain, Padma membeli kain lagi sepanjang 1 m 60 cm. Kain tersebut akan digunakan Padma untuk membuat baju sepanjang 165 cm. Pernyataan yang sesuai dengan sisa kain milik Padma sekarang adalah ....

a. panjangnya kurang dari 180 cm

b. panjangnya lebih dari 200 cm

c. panjangnya kurang dari 190 cm

d. panjangnya lebih dari 210 cm

12. Amati gambar berikut!



Bu Indah membeli satu saus tiram seperti gambar di atas. Volume saus tiram dalam kemasan tersebut adalah ... L.

a. 0,5

b. 5

c. 50

d. 500

13. Kedai minuman mendapat kiriman 9 liter 600 mL susu segar. Setelah 2 jam kedai dibuka, tersisa 6 L 250 mL susu segar. Susu segar yang terjual selama 2 jam adalah ... mL.

a. 3.000

b. 3.250

c. 3.350

d. 3.450

14. Suatu toko menjual 5 kg telur dengan harga Rp130.000,00. Berikut uang yang dibayarkan seorang pembeli.

Jadi, pembeli tersebut akan memperoleh telur sebanyak ... kg.

a. 14

b. 15

c. 16

d. 17

15. Bu Rita akan membuat kue. Bu Rita memiliki 1.500 gram tepung, 3,5 hektogram gula, 0,3 kilogram bubuk cokelat, dan susu bubuk. Jika berat seluruh bahan untuk membuat kue 2,6 kg, berat susu bubuk adalah ... gram.

a. 400

b. 450

c. 500

d. 550

16. Ridwan memerlukan waktu 4 jam 15 menit untuk membuat petakan lahan tanaman cabai dan 1 jam 10 menit untuk menebar bibit cabai. Selama bekerja, Ridwan beristirahat dua kali masing-masing 5 menit dan 20 menit. Jika mulai bekerja pukul 08.25, Ridwan akan selesai bekerja pukul ....

a. 12.15

b. 13.25

c. 14.00

d. 14.15

17. Bus Sinar Jaya menempuh perjalanan dari Kota Bandung ke Kota Yogyakarta dengan kecepatan rata-rata 60 km/jam. Waktu yang dibutuhkan untuk sampai di Kota Yogyakarta adalah 6 jam 40 menit. Kecepatan rata-rata yang diperlukan bus tersebut untuk tiba di Kota Yogyakarta lebih awal 1 jam 20 menit adalah ....

a. 65 km/jam

b. 70 km/ jam

c. 75 km/jam

d. 80 km/jam

18. Gambar berikut menunjukkan persegi panjang dan persegi.

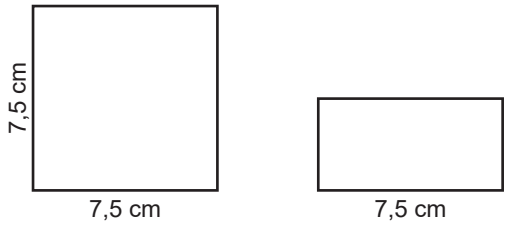

Luas daerah persegi panjang sama dengan setengah luas daerah persegi. Perbandingan keliling persegi panjang dan persegi adalah ....

a. 2 : 1

b. 2 : 3

c. 3 : 4

d. 4 : 5

19. Pak Farhan mempunyai sebidang tanah dengan bentuk seperti gambar berikut.

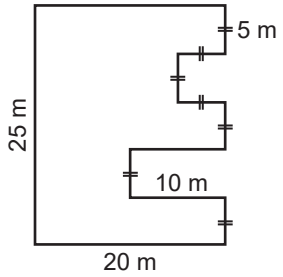

Pak Farhan hendak memasang pagar besi di sekeliling tanah tersebut. Panjang pagar besi yang dibutuhkan Pak Farhan adalah ... m.

a. 120

b. 125

c. 130

d. 135

20. Gambar berikut menunjukkan denah taman bermain.

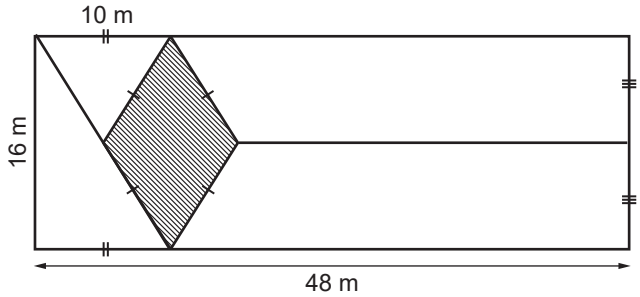

Bagian yang diarsir merupakan gazebo. Luas daerah gazebo tersebut adalah ... m^2.

a. 256

b. 224

c. 160

d. 80

21. 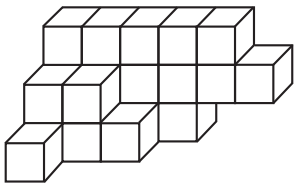

Amati gambar di samping!
Jika volume setiap kubus satuan adalah 1 cm^3, volume bangun tersebut adalah ... cm^3.

a. 20

b. 21

c. 22

d. 23

22. Eva dan Lusi sedang belajar bersama. Eva menggambar sudut berikut.

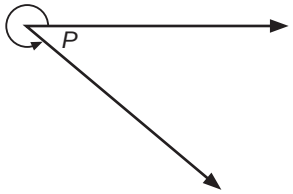

Eva meminta Lusi mengukur besar sudut *P*. Cara yang seharusnya digunakan Lusi adalah ....

a. sudut satu putaran dikurangi 30°

b. sudut satu putaran dikurangi 40°

c. sudut satu putaran dikurangi 50°

d. sudut satu putaran dikurangi 60°

23. Penduduk Desa Banyumanik mendapat dua kali sumbangan beras. Pertama mendapatkan 12.367 kg beras dan yang kedua mendapatkan sumbangan 15.705 kg beras. Beras tersebut akan dibagikan ke setiap kepala keluarga secara sama rata. Jika ada 100 kepala keluarga di Desa Banyumanik, taksiran terdekat banyak beras yang diterima setiap kepala keluarga adalah ... kg

a. 270

b. 271

c. 281

d. 291

24. Piktogram berikut menunjukkan data hasil penjualan puding selama enam hari.

Hari	Banyak Puding
Senin	
Selasa	
Rabu	
Kamis	
Jumat	
Sabtu	
	mewakili 3 puding.

Pernyataan yang tidak sesuai dengan piktogram tersebut adalah ....

a. penjualan puding paling banyak pada hari Jumat

b. hasil penjualan puding sama banyak terjadi pada hari Senin dan Sabtu

c. ada 15 puding terjual pada hari Rabu

d. hasil penjualan puding dari hari Senin hingga Sabtu adalah 87 loyang

25. Tabel berikut menyajikan banyak murid di SDN Tunas Bangsa.

Kelas	Banyak Murid
I	32
II	50
III	30
IV	40
V	64
VI	30

Diagram batang yang benar dalam menyajikan data tersebut adalah ....

a.

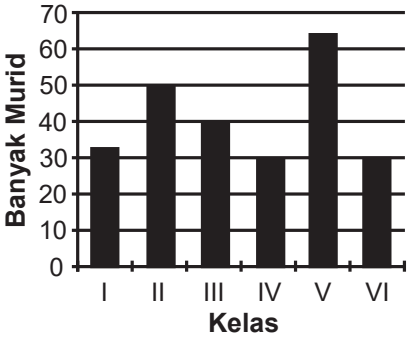

b.

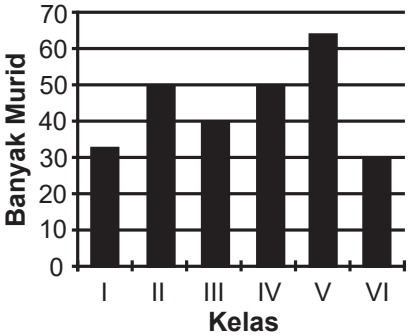

c.

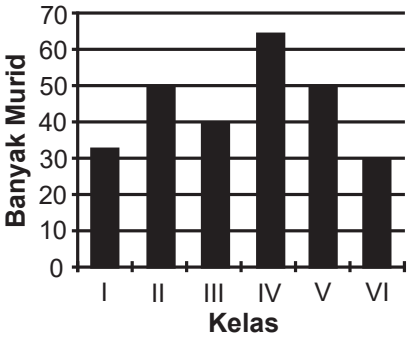

d.

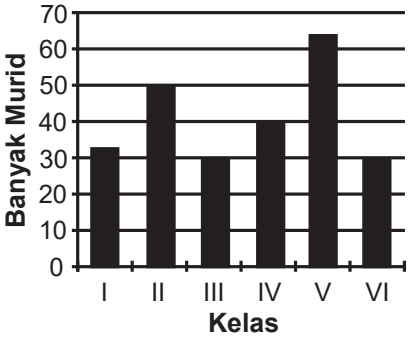

B. Pilihan Ganda Kompleks MCMA

Pilihlah lebih dari satu jawaban yang benar!

Setiap Soal Bernilai 5 poin.

26. Marsha selalu menyisihkan uang sakunya. Setelah beberapa waktu, Marsha berhasil mengumpulkan uang Rp30.000,00. Penggunaan uang tersebut dapat dilihat pada tabel berikut.

Barang yang Dibeli	Uang yang Digunakan (Bagian)
Buku tulis	$\frac{2}{5}$
Bolpoin	$\frac{1}{6}$
Es krim	$\frac{3}{10}$

Pernyataan yang tepat adalah ....

a. Marsha membayar Rp12.000,00 untuk membeli buku tulis

b. harga bolpoin yang dibeli Marsha adalah Rp6.000,00

c. es krim yang dibeli Marsha harganya Rp9.000,00

d. sisa uang Marsha Rp5.000,00

27. Zahra, Evan, dan Dania masing-masing menulis satu bilangan di selembar kertas.



Misalnya, FPB dari ketiga bilangan tersebut adalah ■. Pernyataan yang tepat mengenai ■ adalah ....

a. ■ bilangan genap

b. ■ bilangan ganjil tetapi bukan prima

c. ■ bilangan prima

d. ■ habis dibagi 7

28. Diagonal termasuk salah satu unsur bangun datar. Namun, ada bangun datar yang tidak mempunyai diagonal, yaitu segitiga. Pada beberapa bangun datar diagonal digunakan untuk menentukan luas daerah bangun datar tersebut. Segi empat yang mempunyai diagonal tidak sama panjang adalah ....

a. persegi panjang

b. jajargenjang

c. trapesium sama kaki

d. belah ketupat

29. 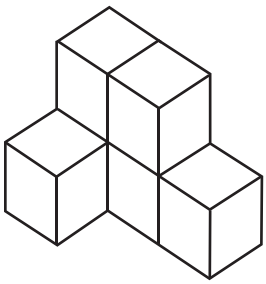

Amati gambar di samping!
Bangun ruang tersebut dipotong rusuk-rusuknya hingga diperoleh jaring-jaring. Jika ada ■ persegi dalam rangkaian jaring-jaring tersebut, pernyataan yang benar adalah ....

a. ■ kelipatan 4

b. ■ kelipatan 5

c. ■ faktor dari 72

d. ■ faktor dari 80

30. Seekor induk sapi memiliki dua ekor anak yang beratnya berbeda. Induk sapi dan anak sapi pertama memiliki berat 80 kg. Jika mereka ditimbang lagi beserta anak sapi kedua, beratnya menjadi 1.070 hg. Diketahui berat induk sapi adalah 50.000 gram. Pernyataan yang benar adalah ....

a. anak sapi kedua memiliki berat 10 kg lebih banyak dari anak sapi pertama

b. anak sapi pertama lebih berat dibandingkan induknya

c. jumlah berat kedua anak sapi lebih besar dari berat induknya

d. selisih berat kedua anak sapi adalah 3.000 gram

31. Dodi membuat trapesium sama kaki dari kertas karton. Perbandingan panjang sisi sejajar pada trapesium buatan Dodi adalah 1 : 4. Panjang kaki trapesium 10 cm, tinggi 8 cm, dan luas daerahnya 80 cm^2. Pernyataan yang sesuai adalah ....

a. panjang sisi-sisi yang sejajarnya 4 cm dan 16 cm

b. panjang sisi-sisi yang sejajarnya 5 cm dan 20 cm

c. keliling trapesium yang dibuat Dodi kurang dari 45 cm

d. keliling trapesium yang dibuat Dodi lebih dari 45 cm

32. Sebuah kubus memiliki panjang rusuk 8 cm. Kemudian rusuk tersebut diperkecil sebesar $\frac{3}{4}$ kali panjang rusuk semula. Pernyataan yang benar adalah ....

a. selisih panjang rusuk kedua kubus tersebut adalah 2 cm

b. volume kubus setelah diperkecil lebih dari 300 cm^3

c. volume kubus sebelum diperkecil kurang dari 500 cm^3

d. jumlah volume kedua kubus tersebut lebih dari 700 cm^3

33. Berdasarkan ukurannya, sudut dibedakan menjadi sudut lancip, sudut siku-siku, dan sudut tumpul. Pengukuran besar sudut berikut yang menunjukkan sudut tumpul adalah ….

a. 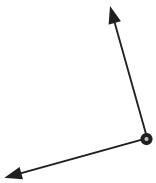

b. 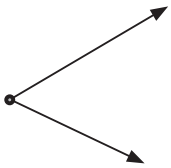

c. 

d.

34. Perhatikan diagram batang yang menyajikan data banyak pengguna internet di wilayah *A* yang mengakses media sosial tahun 2024 dan 2025 berikut!

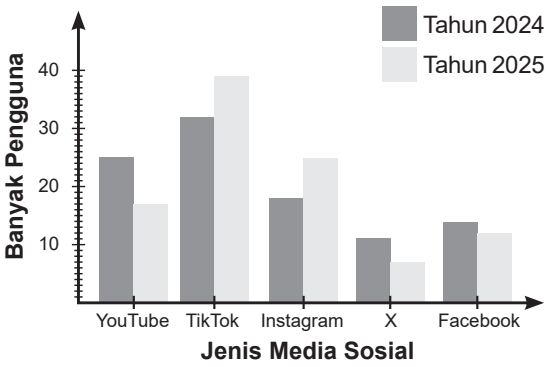

Pernyataan berikut yang benar adalah ….

a. ada 18 orang yang menggunakan X selama dua tahun terakhir

b. pengguna YouTube tahun 2024 lebih sedikit dari pengguna Facebook tahun 2025

c. pengguna yang mengakses media sosial tahun 2024 dan 2025 sama banyak

d. selisih banyak pengguna yang mengakses TikTok tahun 2024 dan Instagram tahun 2025 adalah 9 orang

35. Diketahui hasil penjualan petani sayur Bukit Tinggi dalam satu minggu terakhir sebagai berikut.

Hari	Banyak Sayur Terjual (dalam kg)
Senin	1.320
Selasa	830
Rabu	940
Kamis	910
Jumat	600
Sabtu	1.100
Minggu	1.600

Pernyataan yang tepat dengan tabel di atas adalah …

a. penjualan sayur paling sedikit terjadi pada hari Selasa

b. pada hari Rabu, petani sayur menjual 940 kg sayuran

c. penjualan sayur hari Sabtu lebih banyak daripada hari Senin

d. banyak sayur yang terjual selama seminggu adalah 7.300 kg

C. Pilihan Ganda Kompleks Kategori

Tentukan Benar atau Salah dari setiap pernyataan yang diberikan!

Setiap Soal Bernilai 5 poin.

36. Diketahui suatu bilangan empat angka terkecil yang habis dibagi oleh 15, 18, 21, dan 28.

Pernyataan	Benar	Salah
Nilai tempat ratusan bilangan tersebut ditempati angka 2.	☐	☐
Nilai tempat puluhan bilangan tersebut ditempati angka 5.	☐	☐
Nilai tempat satuan bilangan tersebut ditempati angka 0	☐	☐

37. Suatu keranjang mempunyai kapasitas $2\frac{1}{2}$ kg. Bu Ratih menyimpan $1\frac{5}{6}$ kg buah jambu dalam keranjang tersebut. Jika ditambahkan $\frac{■}{●}$ kg buah jambu, keranjang tersebut akan terisi hingga kapasitas maksimum.

Pernyataan	Benar	Salah
■ dan ● bilangan prima, (■ + ●) juga bilangan prima.	☐	☐
KPK dari ■ dan ● adalah 6.	☐	☐
Hasil dari ■ × ● adalah bilangan yang habis dibagi 5.	☐	☐

38. Suatu segitiga mempunyai tiga sudut. Jumlah sudut-sudut dalam suatu segitiga selalu sama.

Pernyataan	Benar	Salah
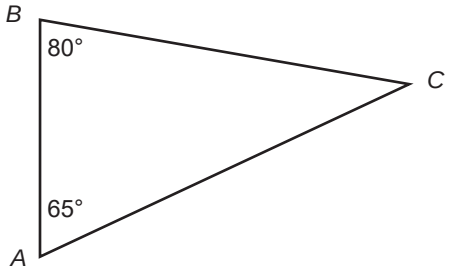 Besar sudut *C* adalah 35°.	☐	☐
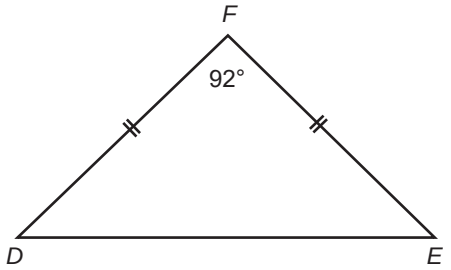 Besar sudut *D* adalah 48°.	☐	☐
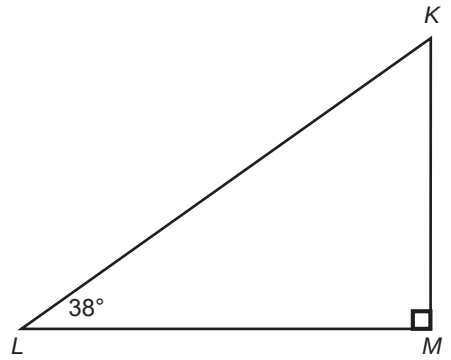 Besar sudut *K* adalah 52°.	☐	☐

39. Ada tiga jarum pada suatu jam. Jarum yang menunjukkan jam, menit, dan detik. Jarum yang menunjukkan jam sering disebut jarum pendek, sedangkan jarum yang menunjukkan menit sering disebut jarum panjang. Besar sudut terkecil yang dibentuk kedua jarum jam tersebut dapat diukur.

Pernyataan	Benar	Salah
 Kedua jarum jam membentuk sudut 160°.	☐	☐
 Kedua jarum jam membentuk sudut 60°.	☐	☐
 Kedua jarum jam membentuk sudut 45°.	☐	☐

40. Seorang petugas melakukan pencatatan kecepatan sepeda motor (dalam km/jam) yang melalui suatu ruas jalan selama 10 menit. Hasil pencatatannya disajikan dalam diagram batang berikut.

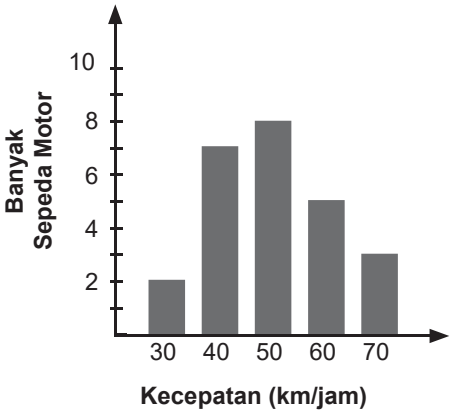

Pernyataan	Benar	Salah
Banyak sepeda motor yang melaju dengan kecepatan kurang dari 50 km/jam adalah 9 kendaraan.	☐	☐
Ada 6 sepeda motor yang melaju dengan kecepatan 60 km/jam.	☐	☐
Banyak sepeda motor yang dicatat oleh petugas adalah 25 kendaraan.	☐	☐

Nilai

Lihat Nilai