Nama	
Kelas	
No. Absen	

Langkah Pengerjaan

1. Isilah Nama, Kelas, dan No. Absen.
2. Kerjakan soal sesuai perintahnya.
   - Untuk pilihan ganda, klik pada lingkaran huruf di depan jawaban yang benar.
   - Untuk pilihan ganda kompleks jawablah dengan mencentang semua jawaban yang benar.
3. Pastikan semua jawaban sudah kamu isi.
4. Setelah semua soal selesai kamu jawab, Save jawabanmu.
5. Kirimkan kepada gurumu melalui WhatsApp atau email.

Prediksi Soal TKA 4

Setiap Soal Bernilai 1 poin.

A. Pilihan Ganda

Pilihlah salah satu jawaban yang benar!

1. Amati gambar berikut!

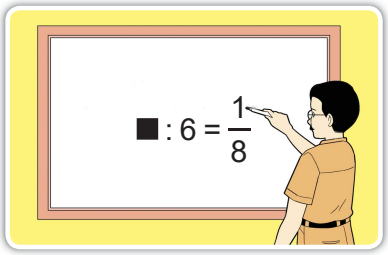

Ilustrasi yang menunjukkan nilai pecahan ■ adalah ....

a.

b.

c.

d.

2. Ibu membuat satu loyang kue yang dipotong menjadi 6 bagian sama besar. Budi mengambil 2 bagian kue dan Dimas mengambil 3 bagian kue. Jika dinyatakan dalam pecahan, perbandingan yang tepat adalah ....

a. $\frac{2}{3} > \frac{1}{2}$

b. $\frac{2}{3} < \frac{1}{2}$

c. $\frac{1}{3} < \frac{1}{2}$

d. $\frac{1}{3} > \frac{1}{2}$

3. Ada 25 nama murid kelas IV SD Rajawali dalam daftar absen. Berikut nama-nama murid yang tidak masuk sekolah hari ini.

Persentase murid kelas IV SD Rajawali yang masuk sekolah adalah ....

a. 80%

b. 82%

c. 84%

d. 86%

4.

Pak Lilik membeli jas hujan di supermarket. Pak Lilik membayar dengan 1 lembar seratus ribuan, 1 lembar lima puluh ribuan, 1 lembar dua puluh ribuan, dan 1 keping lima ratusan. Kasir memberikan kembalian berupa uang dua ribuan. Jadi, uang kembalian yang diterima Pak Lilik adalah ... lembar dua ribuan.

a. dua

b. tiga

c. empat

d. lima

5. Amati gambar berikut!

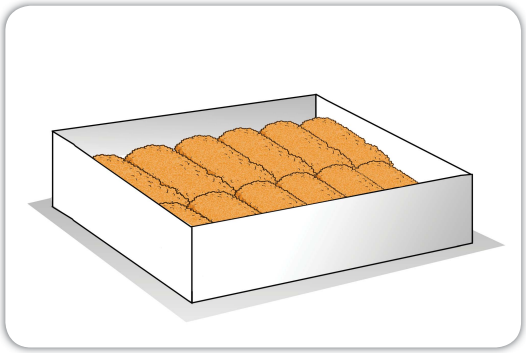

Satu dus risol seperti gambar tersebut dijual dengan harga Rp36.000,00. Jika Bu Rini membeli 8 risol, harga yang harus dibayarnya adalah ....

a.

b.

c.

d.

6. Ibu memiliki persediaan $1\frac{3}{10}$ kg gula pasir. Ibu membeli lagi $6\frac{1}{2}$ kg gula pasir untuk membuat kue. Setelah selesai membuat kue, ternyata tersisa $4\frac{2}{5}$ kg gula pasir. Jika banyaknya gula pasir yang digunakan untuk membuat kue adalah $\blacksquare\frac{\bullet}{\blacktriangle}$ kg, pernyataan yang sesuai adalah .....

a. ■, ●, dan ▲ bilangan prima

b. ■, ●, dan ▲ bilangan nonprima

c. ● dan ▲ bilangan prima tetapi ■ bilangan nonprima

d. ■ dan ▲ bilangan prima tetapi ● bilangan nonprima

7. Bu Sonia mempunyai 120 kantong beras, 60 kantong minyak goreng, dan 75 kantong gula pasir yang akan dibagikan kepada tetangga yang kurang mampu. Setiap orang akan menerima bantuan sama banyak. Pernyataan berikut yang tidak tepat adalah ....

   a. ada 16 tetangga kurang mampu yang akan menerima bantuan dari Bu Sonia

   b. setiap tetangga kurang mampu menerima 8 kantong beras

   c. setiap tetangga kurang mampu menerima 4 kantong minyak goreng

   d. setiap tetangga kurang mampu menerima 5 kantong gula pasir

8. Pak Budi bermain bulu tangkis setiap 3 hari sekali. Pak Anton bermain bulu tangkis setiap 5 hari sekali. Pak Helmi bermain bulu tangkis setiap 6 hari sekali. Mereka bermain bulu tangkis di gelanggang olahraga (GOR) yang sama. Mereka bermain bulu tangkis bersama di hari Jumat, 20 Juni 2025. Mereka akan bermain bulu tangkis bersama lagi hari ....

   a. Minggu, 19 Juli 2025

   b. Senin, 19 Juli 2025

   c. Sabtu, 20 Juli 2025

   d. Minggu, 20 Juli 2025

9. Amati pernyataan-pernyataan berikut!
   (1) Diagonal-diagonalnya sama panjang.
   (2) Sisi-sisi yang berhadapan sama panjang.
   (3) Semua sisi sama panjang.
   (4) Keempat sudutnya sama besar dan membentuk sudut siku-siku.

   Ciri-ciri yang dimiliki persegi dan persegi panjang adalah ....

   a. (1), (2), dan (3)

   b. (1), (2), dan (4)

   c. (2), (3), dan (4)

   d. (1), (2), (3), dan (4)

10. Pak Guru menggambar sketsa suatu bangun datar di papan tulis.



Ciri-ciri yang tidak dimiliki bangun tersebut adalah ....

a. keempat sisinya sama panjang

b. keempat sudutnya sama besar

c. kedua diagonalnya berpotongan tegak lurus

d. mempunyai dua simetri lipat

11. Amati gambar berikut!



Jika kubus nomor 3 dipindahkan ke samping kubus nomor 4, gambar yang sesuai adalah ....

a.

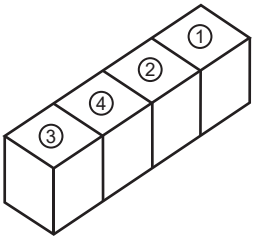

b.

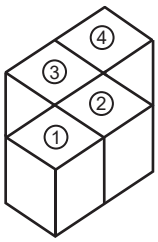

c.

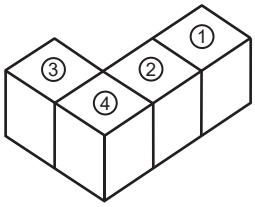

d.

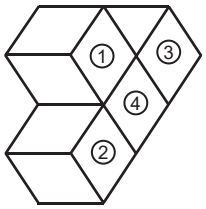

12. Sebuah toko kain mempunyai persediaan 3,89 km kain batik. Dalam seminggu kain batik di toko terjuan 1.875 m. Dalam minggu ini, toko tersebut mendapat kiriman 402 dam kain batik lagi. Persediaan kain batik di toko tersebut adalah ... m.

a. 6.025

b. 6.035

c. 6.305

d. 6.205

13. Amati gambar berikut!

Ayah membeli galon air mineral dengan volume seperti gambar di samping. Selama satu hari Ayah dapat menghabiskan 2.500 mL air. Sisa galon air mineral setelah 5 hari berturut-turut adalah ... L

a. 5,5

b. 6,5

c. 7,5

d. 8,5

14. Amatilah gambar berikut!

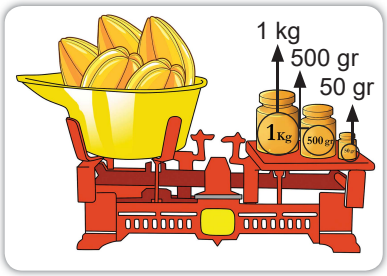

Bu Ratna membeli belimbing di pasar. Berat belimbing yang dibeli seperti gambar di samping. Berat belimbing yang ditimbang adalah … hg.

a. 155

b. 1,55

c. 15,5

d. 1550

15. Arum membeli 3.200 gram gula pasir. Ika membeli gula pasir lebih banyak daripada Arum. Kemungkinan berat gula pasir yang dibeli Ika adalah ….

a. 20.000 mg

b. 1,5 kg

c. 35 hg

d. 200 dag

16. Lusi mulai belajar pada pukul 06.30. Pertama-tama ia belajar Bahasa Inggris selama 2 jam 30 menit. Selanjutnya, ia belajar Matematika selama 80 menit. Lusi selesai belajar pada pukul ....

a. 09.00

b. 09.40

c. 10.20

d. 11.00

17. Amir berangkat dari Sukabumi ke Tasikmalaya pukul 08.15 dengan kecepatan rata-rata 40 km/jam. Pada waktu bersamaan, Doni berangkat dari Tasikmalaya menuju Sukabumi dengan kecepatan rata-rata 45 km/jam. Jika jarak Sukabumi dan Tasikmalaya 255 km, Amir dan Doni akan berpapasan di jalan pada pukul ....

a. 10.15

b. 11.15

c. 12.15

d. 13.15

18. Dua segitiga siku-siku dirangkai hingga membentuk bangun datar baru seperti gambar berikut.

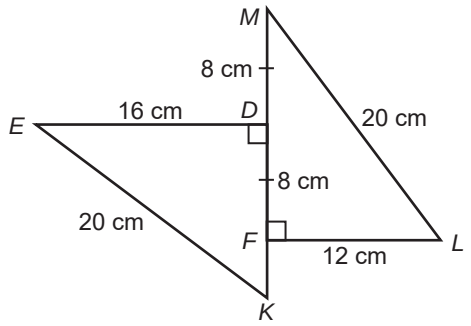

Jika panjang *DK* = 12 cm, keliling bangun datar baru tersebut adalah ... cm.

a. 78

b. 80

c. 86

d. 92

19. Amati gambar berikut!

A	*B*
C	*D*

Luas daerah *A* = 16 cm^2, luas daerah *B* = 40 cm^2, dan luas daerah *C* = 24 cm^2. Jika *A* merupakan daerah persegi, luas daerah *D* sama dengan … cm^2.

a. 60

b. 80

c. 100

d. 120

20. Amati bangun-bangun berikut!

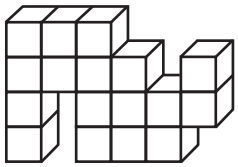
(1)

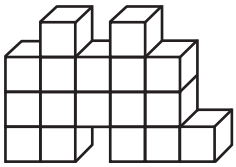
(2)

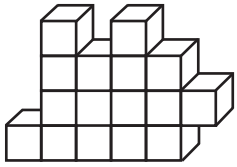
(3)

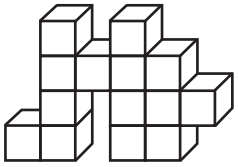
(4)

Diketahui volume setiap kubus satuannya 1 cm^3. Bangun yang mempunyai volume sama besar adalah ....

a. (1) dan (2)

b. (1) dan (3)

c. (2) dan (3)

d. (3) dan (4)

21. Amati sudut-sudut berikut!

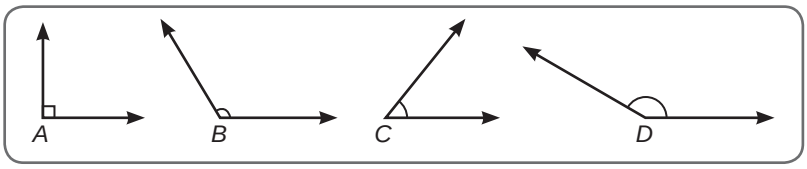

(1) Sudut *A* dan *C* merupakan sudut tumpul.
(2) Besar sudut *D* lebih dari 90°.
(3) Urutan dari paling kecil adalah sudut *C, A, B*, dan *D*.

Pernyataan yang benar adalah ....

a. (1) dan (2)

b. (1) dan (3)

c. (2) dan (3)

d. (1), (2), dan (3)

22. Penggaris termasuk salah satu alat ukur panjang. Selain berbentuk persegi panjang, ada juga penggaris berbentuk segitiga. Penggaris segitiga biasanya berbentuk segitiga siku-siku dan dibedakan menjadi dua, yaitu penggaris segitiga dengan ukuran sudut 30°, 60°, dan 90°, serta ukuran sudut 45°, 45°, dan 90°.

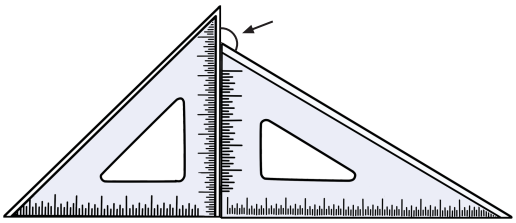

Besar sudut yang ditunjuk anak panah adalah ....

a. 100°

b. 110°

c. 120°

d. 130°

23. Panjang tongkat A 12.560 cm. Tongkat B lebih panjang 350 mm. Jika tongkat A dan B digabungkan, taksiran terdekat panjang kedua tongkat tersebut adalah ... m.

a. 251

b. 252

c. 261

d. 262

24. Berikut hasil sumatif IPAS dan Matematika dari beberapa murid.

Nama	Nilai IPAS	Nilai Matematika
Ali	75	80
Budi	65	75
Citra	80	90
Dedi	80	75
Emi	90	80

Diagram batang yang sesuai untuk menyajikan data tersebut adalah ....

a.
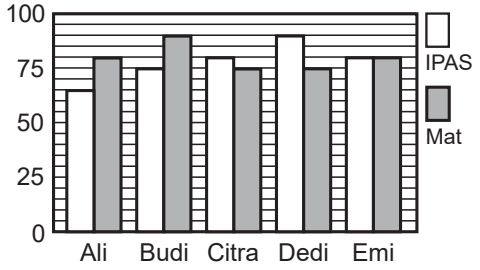

b.
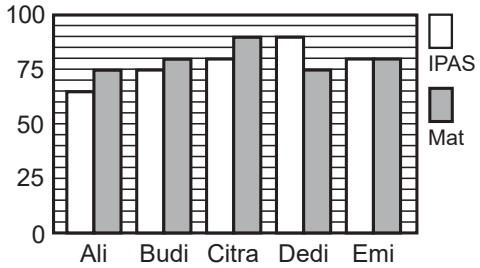

c.
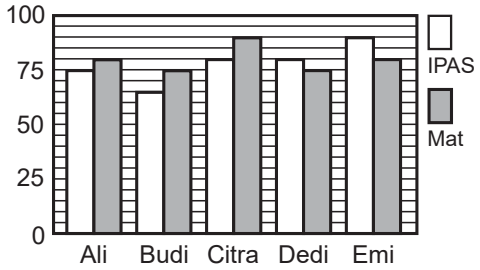

d.
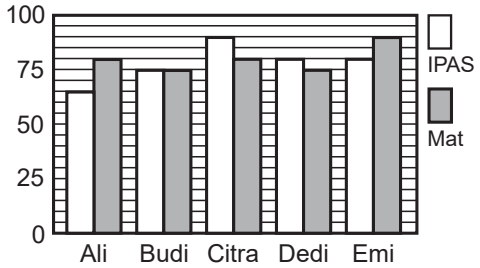

25. Bu Lisa memperoleh pesanan donat dari empat pelanggannya. Donat-donat tersebut akan dikemas di dalam dus. Berikut banyak donat yang dipesan keempat pelanggannya.

Pelanggan	Banyak Pesanan Donat
Bu Lia	
Bu Anis	
Bu Mira	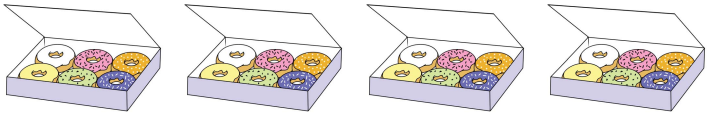
Bu Niken	

Keterangan: mewakili 1 dus donat.

Apabila 1 dus donat dijual dengan harga Rp25.000,00, harga yang harus dibayar Bu Niken adalah ….

a. Rp50.000,00

b. Rp75.000,00

c. Rp100.000,00

d. Rp125.000,00

B. Pilihan Ganda Kompleks MCMA

Setiap Soal Bernilai 5 poin.

Pilihlah lebih dari satu jawaban yang benar!

26. Pak Deni membeli 6 liter minyak goreng menggunakan jeriken. Minyak goreng tersebut akan dituang ke beberapa botol berukuran sama. Pernyataan berikut yang benar adalah ....

a. 7 botol berukuran $\frac{3}{4}$ liter terisi penuh dan 1 botol berukuran $\frac{3}{4}$ liter terisi separuh

b. 8 botol berukuran $\frac{3}{4}$ liter akan terisi penuh minyak goreng

c. 7 botol berukuran $\frac{4}{5}$ liter terisi penuh dan 1 botol berukuran $\frac{4}{5}$ liter terisi separuh

d. 8 botol berukuran $\frac{4}{5}$ liter akan terisi penuh minyak goreng

27. Diketahui 278 + 345 = ●. Pernyataan yang benar mengenai ● adalah ....

a. nilai tempat ratusan pada bilangan ● ditempati angka ganjil

b. nilai tempat puluhan pada bilangan ● ditempati angka genap

c. nilai tempat satuan pada bilangan ● ditempati angka ganjil

d. selisih nilai angka pada tempat satuan dan puluhan adalah 13

28. Diketahui FPB dari dua bilangan adalah 25 dan KPK-nya adalah 375. Nilai salah satu bilangan adalah lima kali FPB-nya. Pernyataan yang benar adalah ....

a. selisih kedua bilangan tersebut adalah 50

b. jumlah kedua bilangan tersebut adalah 175

c. perbandingan kedua bilangan tersebut adalah 5 : 3

d. kedua bilangan tersebut habis dibagi 10

29. Ratna mempunyai kain merah sepanjang 3 m 50 cm. Putri mempunyai kain biru sepanjang 2.400 mm. Syifa mempunyai kain hijau sepanjang 4,2 m. Pernyataan yang benar adalah ....

a. panjang kain Ratna dan Syifa lebih dari 8 m

b. selisih kain Putri dan Ratna kurang dari 150 cm

c. panjang semua kain Ratna, Syifa, dan Putri kurang dari 1 dam

d. jika kain Syifa dipotong 202 cm, sisa kain Syifa lebih dari 2 m

30. Tiga ruas garis dapat membentuk segitiga bilamana memenuhi ketaksamaan segitiga. Tiga ruas garis berikut yang dapat membentuk suatu segitiga adalah ....

a. 10 cm, 11 cm, dan 23 cm

b. 9 cm, 10 cm, dan 18 cm

c. 7 cm, 8 cm, dan 12 cm

d. 5 cm, 6 cm, dan 14 cm

31. Arka memiliki mainan berbentuk kubus yang disusun sebagai berikut.

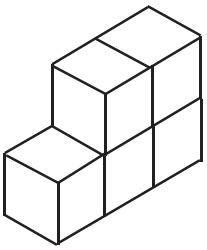

Susunan kubus yang mungkin terbentuk dari banyak kubus milik Arka adalah ....

a.

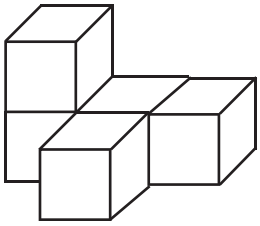

b.

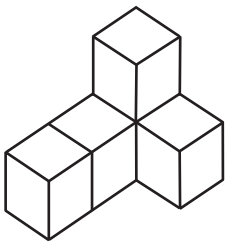

c.

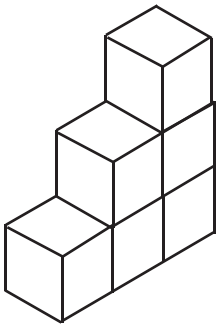

d.

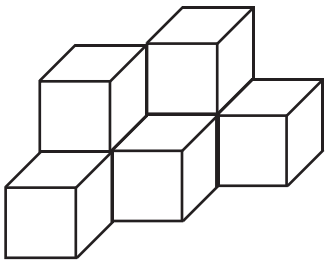

32. Amati gambar berikut!

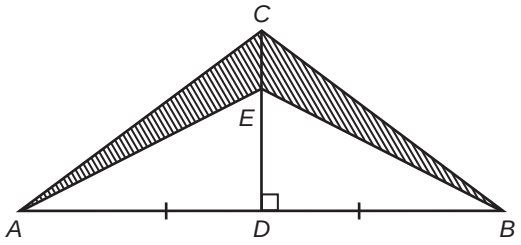

Segitiga *ABC* adalah segitiga sama kaki dengan *AC* = *BC*, *AD* = 16 cm, *DB* = 2 × *ED*, dan *CD* : *ED* = 3 : 2. Jika luas daerah yang diarsir adalah ■ cm^2, pernyataan yang sesuai dengan ■ adalah ....

a. ■ kelipatan 2

b. ■ kelipatan 3

c. ■ kelipatan 4

d. ■ kelipatan 5

33. Pak Jaka memiliki dua kebun berbentuk persegi dan persegi panjang. Kebun berbentuk persegi panjang memiliki panjang 45 m dan lebar 32 m. Adapun kebun berbentuk persegi memiliki sisi yang panjangnya dua kali dari lebar kebun yang berbentuk persegi panjang. Pernyataan yang benar mengenai bilangan yang menyatakan selisih luas daerah kebun Pak Jaka adalah ....

a. nilai tempat satuan ditempati angka 6

b. nilai tempat puluhan ditempati angka 6

c. nilai tempat ratusan ditempati angka 5

d. nilai tempat ribuan ditempati angka 2

34. Pemerintah Kota ABC melakukan penanaman pohon di beberapa jalan kota. Berikut diagram batang banyak pohon yang ditanam setiap jalan.

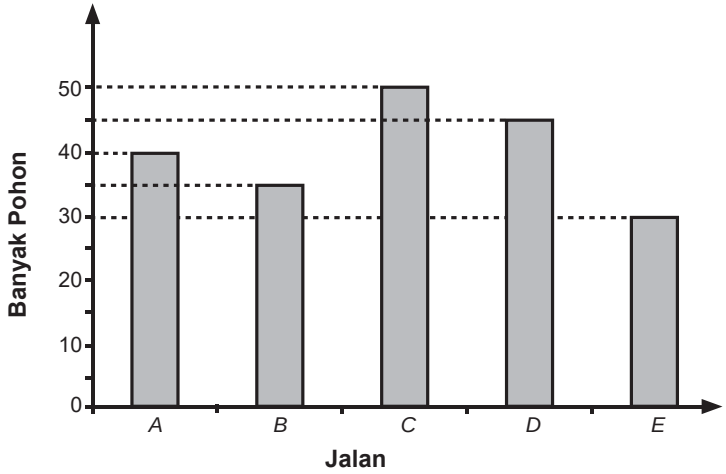

Pernyataan yang tepat adalah ....

a. jalan yang paling banyak ditanami pohon adalah Jalan C

b. jalan yang paling sedikit ditanami pohon adalah Jalan B

c. banyak pohon yang ditanam pemerintah Kota ABC lebih dari 300 pohon

d. selisih pohon yang ditanam diJalan A dan Jalan D kurang dari 10 pohon

35. Berikut data jenis bola yang disimpan di gudang SD Nusantara.

Jenis Bola	Banyaknya
Basket	
Sepak	
Tenis	
Voli	

Pernyataan yang tidak sesuai dengan piktogram tersebut adalah ....

a. ada 7 bola basket di gudang

b. bola tenis paling banyak

c. bola voli paling sedikit

d. bola sepak lebih banyak daripada bola basket

C. Pilihan Ganda Kompleks Kategori

Tentukan Benar atau Salah dari setiap pernyataan yang diberikan!

Setiap Soal Bernilai 5 poin.

36. Pak Toni memanen apel dari dua kebun miliknya. Pak Toni memperoleh 225 kg apel dari kebun pertama dan 313 kg apel dari kebun kedua. Pak Toni menjual 135 kg apel hasil panennya kepada pabrik pengolahan apel. Berikut pernyataan mengenai banyak apel hasil panen Pak Toni yang belum terjual.

Pernyataan	Benar	Salah
Nilai tempat puluhan dan satuan ditempati angka yang sama.	☐	☐
Nilai tempat ratusan ditempati angka genap.	☐	☐
Nilai tempat satuan ditempati bilangan prima.	☐	☐

37. Segitiga dapat dibedakan menjadi tiga jenis berdasarkan panjang sisinya. Amati segitiga *PQR* berikut!

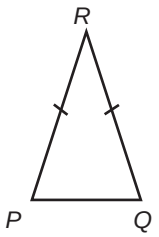

Pernyataan	Benar	Salah
Sudut *P*, sudut *Q*, dan sudut *R* besarnya sama.	☐	☐
Jika sisi *PR* panjangnya 12 cm, sisi *QR* panjangnya 12 cm.	☐	☐
Jika $\angle P = 50°$, maka $\angle R - \angle Q = 30°$	☐	☐

38. Amati gambar berikut!

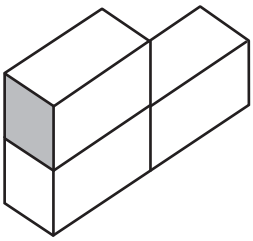

Suatu bangun ruang tersusun atas tiga balok berukuran sama. Sisi yang diraster berbentuk persegi.

Pernyataan	Benar	Salah
Berikut tampilan bangun ruang tersebut ketika dilihat dari atas.	☐	☐
Berikut tampilan bangun ruang tersebut ketika dilihat dari samping kanan. 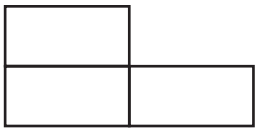	☐	☐
Berikut tampilan bangun ruang tersebut ketika dilihat dari depan. 	☐	☐

39. Banyak murid kelas I sampai VI di SD Harapan Cermat disajikan dalam tabel berikut.

Kelas	Banyak Murid
I	45
II	32
III	43
IV	36
V	24
VI	25

Pernyataan	Benar	Salah
Banyak murid kelas I sampai kelas VI ada 205 anak.	☐	☐
Selisih banyak murid kelas III dan V lebih dari 20 anak.	☐	☐
Banyak murid kelas II empat kurangnya dari murid kelas IV.	☐	☐

40. Data hasil penjualan beras (dalam kg) di Toko Dewi Sri pada lima hari minggu pertama bulan Maret disajikan dalam bentuk diagram batang berikut.

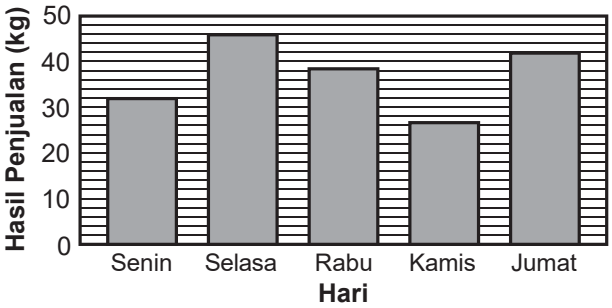

Pernyataan	Benar	Salah
Penjualan hari Kamis dan Jumat berselisih 15 kg.	☐	☐
Selama 5 hari terjual 168 kg beras.	☐	☐
Pada hari Rabu terjual lebih dari 30 kg beras.	☐	☐

Nilai

Lihat Nilai