Nama	
Kelas	
No. Absen	

Langkah Pengerjaan

1. Isilah Nama, Kelas, dan No. Absen.
2. Kerjakan soal sesuai perintahnya.
   - Untuk pilihan ganda, klik pada lingkaran huruf di depan jawaban yang benar.
   - Untuk pilihan ganda kompleks jawablah dengan mencentang semua jawaban yang benar.
3. Pastikan semua jawaban sudah kamu isi.
4. Setelah semua soal selesai kamu jawab, Save jawabanmu.
5. Kirimkan kepada gurumu melalui WhatsApp atau email.

Prediksi Soal TKA 5

Setiap Soal Bernilai 1 poin.

A. Pilihan Ganda

Pilihlah salah satu jawaban yang benar!

1. Okta, Rosi, Fika, dan Desi masing-masing menulis pecahan berikut.

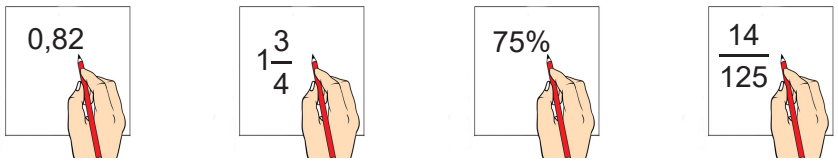

Okta Rosi Fika Desi

Anak yang menulis pecahan lebih besar dari Fika adalah ....

a. Desi dan Okta

b. Okta dan Rosi

c. hanya Desi

d. Desi dan Rosi

2. Siska mempunyai lemari gantungan baju yang hanya dapat memuat maksimal 50 gantungan. Siska hanya menggunakan 80% dari kapasitas maksimal lemari tersebut. Jadi, banyak baju yang dimiliki Siska ada ... helai.

a. 36

b. 40

c. 45

d. 48

3. 

Amati gambar di samping!
Gambar yang sesuai dengan hasil penjumlahan tersebut adalah ....

a. 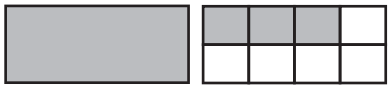

b. 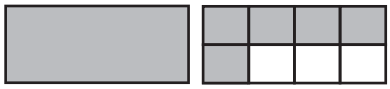

c. 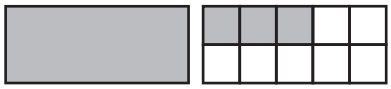

d. 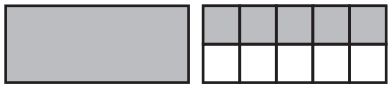

4. Seorang pedagang mempunyai 9 kg tepung beras. Pedagang tersebut mengemas tepung beras dalam beberapa kantong plastik. Ada 11 kantong plastik yang disiapkan. Setiap kantong plastik berisi $\frac{3}{4}$ kg tepung beras. Pernyataan yang tepat adalah ....

a. pedagang tersebut harus menyiapkan satu kantong plastik lagi

b. pedagang tersebut harus menyiapkan dua kantong plastik lagi

c. kantong plastik yang disiapkan sudah sesuai dengan yang dibutuhkan

d. ada satu kantong plastik tersisa setelah semua tepung beras dikemas

5. Pukul 11.20 pada tanggal 21 Juli 2025, bel *A*, *B*, dan *C* berbunyi bersamaan untuk ketujuh kalinya. Bel *A* berbunyi setiap 45 menit sekali, bel *B* berbunyi setiap 30 menit sekali, dan bel *C* berbunyi setiap 40 menit sekali. Ketiga bel tersebut berbunyi pertama kali pada ....

a. tanggal 19 Juli 2025 pukul 17.20

b. tanggal 19 Juli 2025 pukul 19.20

c. tanggal 20 Juli 2025 pukul 17.20

d. tanggal 20 Juli 2025 pukul 19.20

6. Amati gambar berikut!

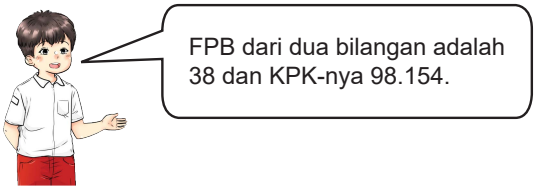

Jika salah satu bilangan adalah 1.558, bilangan yang lain adalah ....

a. 3.450

b. 2.394

c. 1.942

d. 1.260

7. Suatu bangun datar mempunyai ciri-ciri berikut.
   (1) Mempunyai dua pasang sisi sejajar dan sama panjang.
   (2) Sudut-sudut yang berhadapan sama besar.
   (3) Tidak mempunyai simetri lipat.
   Bangun datar yang dimaksud adalah ….

a. trapesium

b. jajargenjang

c. layang-layang

d. persegi panjang

8. Amati bangun datar berikut!

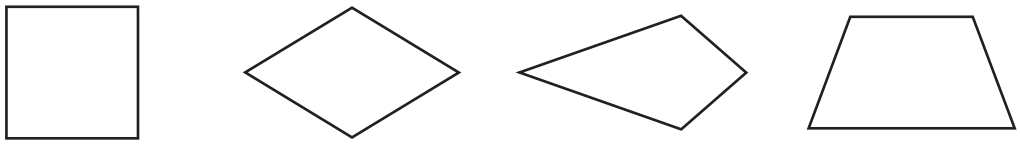

(1) (2) (3) (4)

Bangun datar yang mempunyai simetri putar adalah ....

a. (1) dan (2)

b. (1) dan (3)

c. (1) dan (4)

d. (2) dan (3)

9. Anton mempunyai mainan edukasi berupa balok susun. Setiap sisi balok susun tersebut terdapat magnet. Cara memainkannya dengan menempelkan antarsisi balok hingga membentuk objek yang diinginkan. Anton menyusun tiga balok susun. Bangun berikut yang tidak tersusun atas tiga balok susun adalah ....

a.
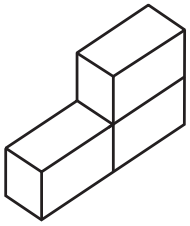

b.
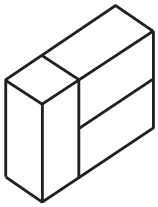

c.
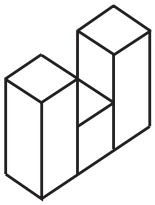

d.
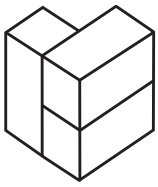

10. Amati gambar berikut!

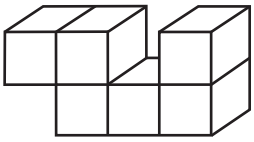

Suatu bangun ruang tersusun atas enam kubus berukuran sama seperti gambar tersebut. Tampilan bangun ruang tersebut ketika dilihat dari atas adalah ....

a.

b.

c.

d.


11. Nino sedang mengukur panjang sebuah kayu menggunakan penggaris 30 cm. Hasil pengukurannya seperti berikut.

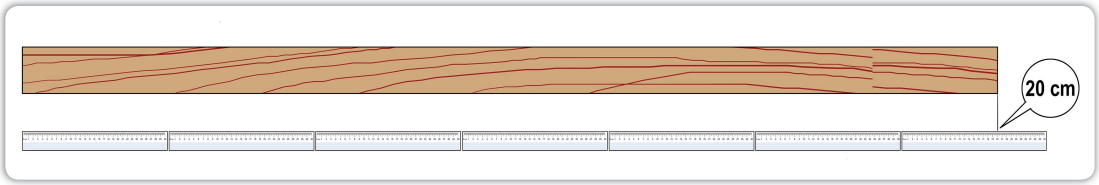

Pernyataan yang benar adalah ....

a. panjang kayu 2.000 dm

b. panjang kayu 1 m 80 cm

c. panjang kayu lebih dari 16 dm

d. panjang kayu kurang dari 200 cm

12. Amati gambar berikut!

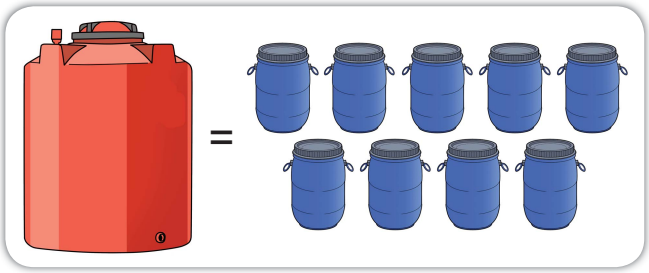

Suatu tandon penuh berisi air. Tandon tersebut akan dibersihkan. Air dalam tandon dipindahkan ke dalam drum. Jika satu drum dapat menampung 75 liter air, volume air dalam tandon adalah ... liter.

a. 625

b. 650

c. 675

d. 700

13. Diberikan beberapa anak timbangan kodok berikut.

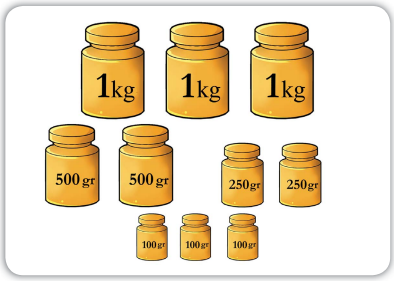

Dita akan menimbang durian menggunakan timbangan kodok. Setelah ditimbang, Dita memperoleh hasil berat durian 2 kg 600 gram. Pernyataan yang tidak benar mengenai kemungkinan anak timbangan yang digunakan Dita untuk menimbang durian adalah ....

a. 2 anak timbangan 1 kg; 1 anak timbangan 500 gram; dan 1 anak timbangan 100 gram

b. 2 anak timbangan 1 kg; 2 anak timbangan 250 gram; dan 1 anak timbangan 100 gram

c. 1 anak timbangan 1 kg; 2 anak timbangan 500 gram; 2 anak timbangan 250 gram; dan 1 anak timbangan 100 gram

d. 1 anak timbangan 1 kg; 2 anak timbangan 500 gram; 1 anak timbangan 250 gram; dan 2 anak timbangan 100 gram

14. Bu Ajeng membeli 6.000 gram cokelat bubuk, 4 kg gula pasir, 1 kg gula jawa, dan 20 ons tepung terigu. Bahan makanan yang paling ringan dibeli Bu Ajeng adalah ....

a. gula jawa

b. gula pasir

c. tepung terigu

d. cokelat bubuk

15. Diketahui jarak Kota *P* dan *Q* adalah 120 km. Sebuah mobil berangkat dari kota *P* ke *Q* dengan kecepatan rata-rata 45 km/jam. Lama perjalanan yang ditempuh mobil tersebut adalah ....

a 2 jam 15 menit

b. 2 jam 30 menit

c. 2 jam 40 menit

d. 2 jam 45 menit

16. 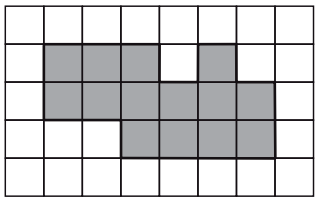

Pak Samsul membuat taman di halaman rumahnya seperti gambar di samping. Misalnya, luas persegi satuannya 1 m^2. Luas taman yang dibuat Pak Samsul dalam satuan cm^2 adalah ....

a. 14 cm^2

b. 140 cm^2

c. 14.000 cm^2

d. 140.000 cm^2

17. Amati gambar berikut!

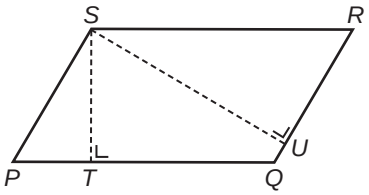

Luas daerah jajargenjang *PQRS* adalah 144 cm^2. Jika panjang *PQ* = 18 cm dan *SU* = 16 cm, keliling jajargenjang *PQRS* adalah ... cm.

a. 64

b. 60

c. 56

d. 54

18. Gambar berikut menunjukkan gabungan layang-layang *ABCD* dan belah ketupat *EBCD*.

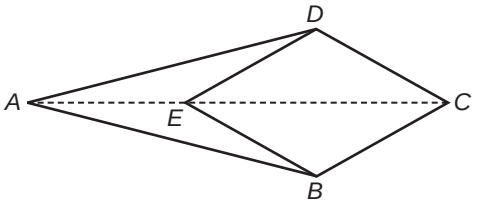

Rasio luas daerah belah ketupat *EBCD* terhadap luas daerah layang-layang *ABCD* adalah 4 : 7. Rasio panjang *EC* terhadap *AE* adalah ....

a. 4 : 3

b. 5 : 4

c. 3 : 4

d. 4 : 5

19. Amati gambar persegi *ABCD* dan jajargenjang *EFGH* berikut!

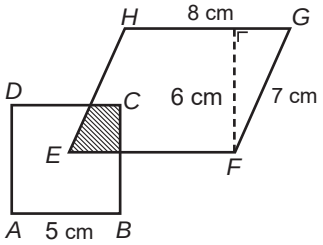

Jika luas semua daerah yang tidak diarsir 61 cm^2, luas daerah yang diarsir adalah ... cm^2.

a. 6

b. 10

c. 12

d. 20

20. Lusi membuat dua kotak dengan jaring-jaring seperti berikut.

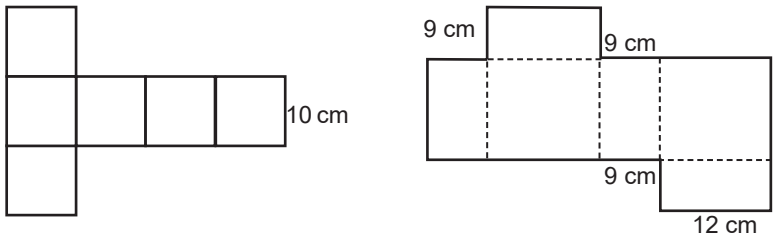

Kotak *A* Kotak *B*

Pernyataan berikut yang benar adalah adalah ....

a. volume kotak *B* lebih besar daripada kotak *A*

b. volume kotak *A* lebih kecil dari kotak *B*

c. kedua kotak tersebut volumenya sama

d. volume kotak *A* lebih besar dari kotak *B*

21. Jarum panjang dan pendek pada jam membentuk sudut seperti gambar berikut.



Urutan besar sudut terkecil yang dibentuk kedua jarum jam dari paling kecil adalah ....

a. pukul 03.00, 06.00, 11.00, 16.00

b. pukul 11.00, 06.00, 16.00, 03.00

c. pukul 11.00, 03.00, 16.00, 06.00

d. pukul 16.00, 11.00, 06.00, 03.00

22. Diketahui $\angle ABC$ dan $\angle CBD$ seperti gambar berikut.

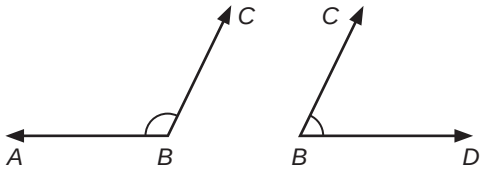

Kedua sudut tersebut digabung dengan kaki sudut *CD* berimpit. Besar sudut yang terbentuk adalah ....

a. 90°

b. 180°

c. 270°

d. 360°

23. Nando adalah salah satu murid SD Nusantara. Setiap hari, Nando berangkat ke sekolah dengan bersepeda. Jarak rumah Nando ke sekolah 1 km lebih 675 meter. Jarak yang ditempuh Nando setiap hari sekitar ... m.

a. 1.680

b. 1.670

c. 168

d. 167

24. Piktogram berikut menyajikan data hasil penjualan sepatu di suatu toko selama semester pertama tahun 2025.

Bulan	Banyak Sepatu
Januari	
Februari	
Maret	
April	
Mei	
Juni	
Keterangan: mewakili empat pasang sepatu.	

Pernyataan berikut yang tidak sesuai dengan data tersebut adalah ....

a. ada 28 pasang sepatu terjual pada bulan Februari

b. penjualan sepatu pada bulan Januari sama banyaknya dengan bulan April

c. penjualan sepatu pada bulan Juni empat pasang lebihnya dari bulan Februari

d. selama semester pertama tahun 2025 terjual 164 pasang sepatu

25. Diagram batang berikut menyajikan data berat badan beberapa anak.

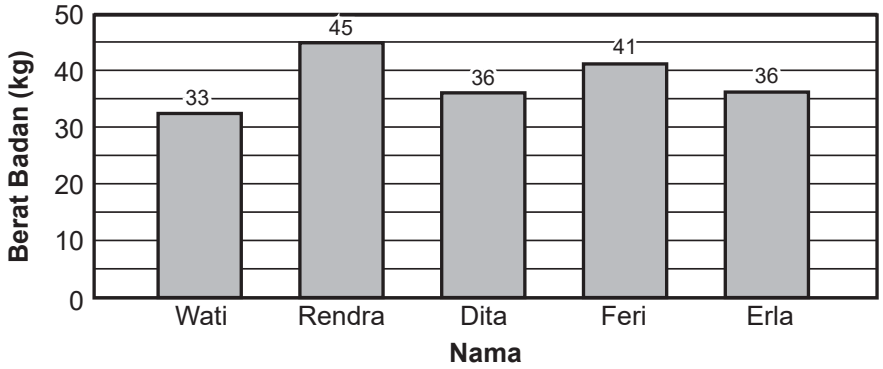

(1) DIta dan Erla mempunyai berat badan yang sama.
(2) Berat badan Wati dan Rendra berselisih 12 kg.
(3) Ada 3 anak yang berat badannya lebih dari 40 kg.
Pernyataan yang benar adalah ....

a. (1) dan (2)

b. (1) dan (3)

c. (2) dan (3)

d. (1), (2), dan (3)

Setiap Soal Bernilai 5 poin.

B. Pilihan Ganda Kompleks MCMA

Pilihlah lebih dari satu jawaban yang benar!

26. Sama halnya dengan bilangan bulat, bilangan pecahan juga dapat digambar pada garis bilangan. Amati garis bilangan berikut!

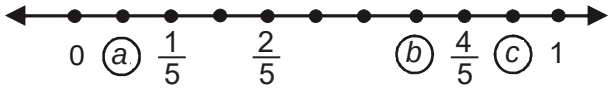

Pernyataan berikut yang benar mengenai garis bilangan di atas adalah ....

a. bilangan *a* senilai dengan pecahan $\frac{2}{20}$

b. bilangan *b* adalah $\frac{7}{10}$

c. pecahan $\frac{21}{30}$ senilai dengan bilangan *c*

d. pembilang dari bilangan *c* kurang dari □

27. Rahma mendapat tugas prakarya membuat bunga. Oleh karena itu, Rahma membeli 2 meter pita. Setiap bunga memerlukan $\frac{3}{10}$ m pita. Pernyataan yang benar adalah ....

a. Rahma dapat membuat 6 bunga utuh

b. Rahma dapat membuat 7 bunga utuh

c. panjang pita yang tidak terpakai kurang dari 25 cm

d. panjang pita yang tidak terpakai lebih dari 25 cm

28. Dela mempunyai uang Rp66.600,00. Dela menyimpan uang tersebut di dompet merah dan dompet biru sama banyaknya. Dela mengambil uang dari dompet merah untuk membeli tempat pensil dengan harga Rp15.500,00. Kemungkinan yang benar mengenai sisa uang di dompet merah adalah ....

a. terdiri atas 1 lembar uang Rp5.000,00, 5 lembar uang Rp2.000,00, dan 10 koin uang Rp200,00

b. terdiri atas 1 lembar uang Rp10.000, 1 lembar uang Rp5.000,00, 1 lembar uang Rp2.000,00, dan 4 koin uang Rp200,00

c. terdiri atas 3 lembar uang Rp5.000,00, 1 lembar uang Rp2.000,00, dan 4 koin uang Rp200,00

d. terdiri atas 1 lembar uang Rp10.000, 1 lembar uang Rp5.000,00, 3 lembar uang Rp2.000,00, dan 4 koin uang Rp200,00

29. Amati gambar berikut!



Ibu membeli kue lapis di pasar dan menatanya di piring. Ibu membeli semua kue lapis tersebut dengan harga Rp22.500,00. Pernyataan yang benar adalah ....

a. harga 1 kue lapis Rp2.000,00

b. harga 5 kue lapis Rp12.500,00

c. harga 8 kue lapis Rp18.000,00

d. harga 12 kue lapis Rp30.000,00

30. Amati pohon faktor berikut!

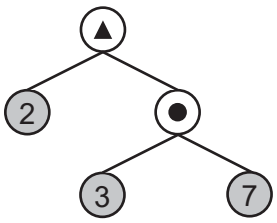

Pernyataan yang benar adalah ....

a. ▲ kelipatan 8

b. salah satu faktor dari (▲ + ●) adalah 9

c. faktorisasi prima dari ● adalah 2 × 3 × 7

d. (▲ – ●) mempunyai dua faktor prima

31. Benda berbentuk persegi banyak dijumpai dalam kehidupan nyata. Contohnya, kertas lipat, sapu tangan, dan ubin. Berikut pernyataan yang tidak tepat mengenai persegi adalah ....

a. memiliki dua sumbu simetri

b. memiliki sepasang sudut siku-siku

c. sudut-sudut yang berhadapan sama besar

d. sisi-sisi yang berhadapan sejajar dan sama panjang

32. Hari ini Bu Nia berbelanja ke pasar. Bu Nia membeli ikan nila seberat 1.600 gram. Pernyataan yang benar adalah ....

a. berat ikan yang dibeli Bu Nia 16 kg

b. Bu Nia membeli ikan seberat 1 ons 600 g

c. ikan yang dibeli Bu Nia beratnya 1 kg 6 ons

d. berat ikan yang dibeli Bu Nia kurang dari 2 kg

33. Diketahui segi delapan beraturan dan persegi mempunyai keliling yang sama, yaitu 96 cm. Pernyataan berikut yang benar adalah ....

a. panjang sisi segi delapan beraturan kurang dari 8 cm

b. panjang sisi persegi dan segi delapan berselisih 12 cm

c. panjang sisi persegi 24 cm

d. sisi segi delapan lebih panjang dibandingkan sisi persegi

34. Amati gambar berikut!

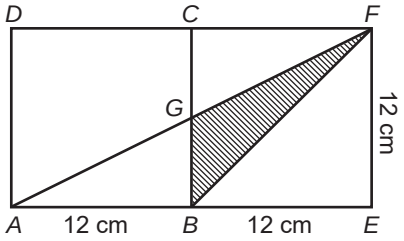

Persegi *ABCD* dan *BEFC* berukuran sama dengan panjang sisi 12 cm. Pernyataan yang tepat adalah ....

a. luas daerah segitiga *AEF* adalah 144 cm^2

b. luas daerah segitiga *ABG* adalah 36 cm^2

c. luas daerah segitiga *BEF* adalah 70 cm^2

d. luas daerah segitiga *BGF* adalah 35 cm^2

35. Data mata pelajaran yang disukai sekelompok murid disajikan dalam bentuk diagram batang seperti gambar berikut.



Pernyataan yang sesuai adalah ….

a. mata pelajaran yang paling sedikit disukai adalah Bahasa Inggris

b. mata pelajaran yang paling banyak disukai adalah IPAS

c. murid yang menyukai Matematika lima kurangnya dari yang menyukai IPAS

d. murid yang menyukai Bahasa Inggris dua lebihnya dari yang menyukai Bahasa Indonesia

C. Pilihan Ganda Kompleks Kategori

Tentukan Benar atau Salah dari setiap pernyataan yang diberikan!

Setiap Soal Bernilai 5 poin.

36. Pada pelajaran prakarya, murid-murid diminta untuk membawa pita satin. Lisa membawa pita satin sepanjang $3\frac{3}{10}$ m. Risma membawa pita satin sepanjang $1\frac{4}{5}$ m.

Pernyataan	Benar	Salah
Jumlah panjang pita satin mereka dapat dinyatakan dengan pecahan campuran berpenyebut 10.	☐	☐
Panjang pita satin Risma dapat dinyatakan dengan pecahan biasa dengan pembilang 20.	☐	☐
Selisih panjang pita satin mereka $1\frac{5}{10}$ m.	☐	☐

37. Bu Ita berbelanja kain dengan total belanjaan Rp549.500,00. Bu Ita membayar dengan 4 lembar seratus ribuan, 2 lembar lima puluh ribuan, 2 lembar dua puluh ribuan, dan 4 lembar dua ribuan.

Pernyataan	Benar	Salah
Bu Ita membayar Rp548.000,00.	☐	☐
Kekurangan uang yang harus dibayarkan Bu Ita adalah Rp2.500,00.	☐	☐
Bu Ita dapat membayar kekurangannya dengan 1 lembar uang Rp1.000,00 dan 1 keping Rp500,00.	☐	☐

38. Bentuk fisik suatu bangunan perkantoran ketika dilihat dari atas ditunjukkan oleh gambar berikut.

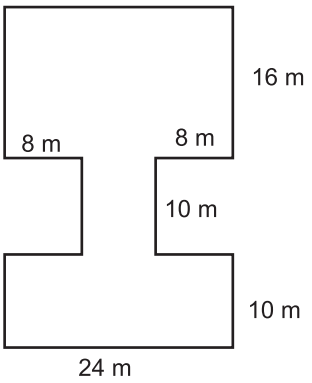

Pernyataan	Benar	Salah
Keliling bangunan perkantoran tersebut adalah 125 m.	☐	☐
Luas bangunan perkantoran tersebut adalah 704 m^2.	☐	☐
Jika *a* adalah keliling bangunan dan *b* adalah luas bangunan, nilai $a - b$ lebih dari 500	☐	☐

39. Segitiga dibatasi oleh tiga ruas garis. Namun, tidak semua tiga ruas garis dapat membentuk segitiga. Ada syarat yang harus dipenuhi agar tiga ruas garis dapat membentuk segitiga.

Pernyataan	Benar	Salah
Kelompok ruas garis 2 cm, 5 cm, 6 cm dapat dilukis menjadi suatu segitiga.	☐	☐
Kelompok ruas garis 4 cm, 5 cm, 9 cm dapat dilukis menjadi suatu segitiga.	☐	☐
Kelompok ruas garis 10 cm, 11 cm, dan 23 cm tidak dapat dilukis menjadi suatu segitiga.	☐	☐

40. Dito mempunyai adik perempuan bernama Ira. Ulang tahun pertama Ira, kurang dari 2 bulan 2 minggu lagi.

Pernyataan	Benar	Salah
Umur Ira sekarang adalah 291 hari.	☐	☐
Ulang tahun Ira kurang dari 76 hari lagi.	☐	☐
Ira akan berulang tahun kurang dari 12 minggu lagi.	☐	☐

Nilai

Lihat Nilai