PT. INDO PRESTASI UTAMA

SUPER MODUL

MATERI + TRYOUT

TKA SMP/MTS

UJIAN SEKOLAH

SMP TINTA EMAS INDONESIA

TELAH DISESUAIKAN DENGAN PERMENDIKDASMEN NO. 047/H/AN/2025 TENTANG TKA SMP/MTs

MATEMATIKA

TELAH DISESUAIKAN DENGAN PERMENDIKDASMEN
NO. 047/H/AN/2025 TENTANG TKA SMP/MTs

Pengurangan

Pada pengurangan bilangan bulat, mengurangi dengan suatu bilangan sama artinya dengan menambah dengan lawan pengurangannya

Contoh :

17 - 48 = - 31

14 - 24 = -38

Perkalian

- Tertutup, bila a dan b ∈ himpunan bil. bulat maka :
  a x b ∈ himpunan bil. bulat
- Komunikatif atau tukar, bila a dan b ∈ himpunan bil. bulat maka :
  a x b = b x a
- Asosiatif atau kelompok, bila a dan b ∈ himpunan bil. bulat maka :
  (a x b) x c = a x (b x c)
- Unsur identitas, untuk a ∈ himpunan bil. bulat berlaku
  a x 1 = a
- Distribusi atau sebar, maka:
  a x (b + c) = (a x b) + (a x c)
  a x (b - c) = (a x b) - (a x c)

Bilangan Bulat I	Bilangan Bulat II	Hasil Perkalian
(+)	(+)	(+)
(+)	(-)	(-)
(-)	(+)	(-)
(-)	(-)	(+)

Contoh :

- 11 x 7 = -77

-15 x (-7) = 105

Pembagian

Pembagian adalah operasi kebalikan (invers) dari perkalian, berlaku :

Jika a, b, dan c bilangan bulat, dengan b faktor a, dan b ≠ 0 maka berlaku :

a : b = c ⇌ a = b x c

Untuk pembagian bilangan bulat berlaku

1. Jika a dan b berlainan tanda maka a : b menghasilkan bilangan negatif.
2. Jika a dan b memiliki tanda yang sama maka a : b menghasilkan bilangan positif.

Catatan:

Jika a ∈ bil. bulat maka :

a : 0 = tidak terdefinisikan

0 : a = 0

Contoh:

108 : (-12) = -9

(-216) : (-6) = 36

Faktor Persekutuan Terbesar (FPB)

FPB dari dua bilangan atau lebih dapat diperoleh dengan cara berikut.

- Pilihlah anggota himpunan persekutuan faktor-faktor yang terbesar.
- Kalikan faktor-faktor yang sama dengan pangkat terkecil.

Contoh :
Tentukan FPB dari 32 dan 56!

Penyelesaian
Cara I :
Himpunan faktor dari 32 adalah :
{1, 2, 4, **8**, 16, 32}
Himpunan faktor dari 56 adalah :
{1, 2, 4, 7, **8**, 14, 28, 56}
FPB dari 32 dan 56 adalah 8

Cara II:
Faktorisasi prima dari 32 = 2^5
Faktorisasi prima dari 56 = 2^3x 7
Ambillah faktor yang sama dengan pangkat terkecil
Diperoleh 2^3= 8
KPK dari 32 dan 56 adalah 8

Skala

Skala adalah perbandingan ukuran antara objek pada gambar dengan objek sesungguhnya.

$$\text{Skala} = \frac{\text{Jarak pada gambar}}{\text{Jarak sesungguhnya}}$$

Skala biasa digunakan pada peta.

Contoh :

1. Skala 1 : 250.000, artinya tiap 1 cm pada peta mewakili 250.000 cm pada jarak sesungguhnya.
2. Skala 1 : 1.500.000, artinya tiap 1 cm pada peta mewakili 1.500.000 cm pada jarak sesungguhnya.

Penggunaan sebagai berikut.

Contoh :

1. Skala suatu peta adalah 1 : 500.000. Jarak kota A dan Kota B pada peta adalah 5 cm. Hitunglah Jarak Kota A ke Kota B sesungguhnya!

   Penyelesaian:

   Skala = 1 : 500.000
   Jarak = 5 x 5 km = 25km

Berlaku perbandingan senilai sebagai berikut.

$$\frac{3}{7} = \frac{7.500}{x}$$

(dengan x adalah harga 7 buah manggis)

$$\Rightarrow 3x = (7 \times 7500)$$
$$\Rightarrow 3x = 52.500$$
$$\Rightarrow x = 17.500$$

Jadi, uang yang dibutuhkan untuk membeli 7 buah manggis adalah Rp17.500

2. Harga 6 buah buku tulis adalah Rp36.000. Tentukan harga 4 buah buku tulis!

Penyelesaian :
Semakin banyak buku tulis yang dibeli, uang yang dibutuhkan untuk membeli semakin banyak.
Berlaku perbandingan senilai sebagai berikut :

$$\frac{6}{4} = \frac{36.000}{x}$$

(dengan x adalah harga 4 buah buku tulis)

$$\Rightarrow 6x = (4 \times 36.000)$$
$$\Rightarrow 6x = 144.000$$
$$\Rightarrow x = 24.000$$

Jadi, harga 4 buah buku tulis Rp24.000

Perbandingan Berbalik Nilai

Perbandingan Berbalik Nilai memiliki ciri-ciri jika nilai awal membesar, nilai akhirnya mengecil. Jika nilai awal mengecil maka nilai akhir membesar.

Hubungan perbandingan senilai adalah :

$$\frac{a_1}{a_2} = \frac{b_2}{b_1} \Rightarrow a_1 \times b_1 = a_2 \times b_2$$

Contoh :

1. Untuk membuat sebuah rumah selama 30 hari diperlukan 8 orang pekerja. Tentukan jumlah pekerja yang diperlukan untuk menyelesaikan rumah dalam 24 hari!

Penyelesaian :
Misalkan, y adalah pekerja yang diperlukan untuk menyelesaikan rumah dalam waktu 24 hari.
Berlaku perbandingan :

$$\frac{8}{y} = \frac{24}{30}$$
$$\Rightarrow 24y = (30 \times 8)$$
$$\Rightarrow 24y = 240$$
$$\Rightarrow y = 10$$

SUPER SOAL BAB 1

1) Setiap ketinggian naik 100 m dari permukaan laut, tempratur udara turun sebesar 5 derajat celcius. Jika suhu dipermukaan laut adalah 37 derajat celcius maka suhu pada ketinggian 2.400 meter diatas permukaan laut adalah ... derajat celcius

a. 49 c. 36
b. 32 d. 25

2) Budi adalah seorang siswa sedang mengerjakan 18 soal dari 25 soal ujian. Tiga jawabannya ternyata salah dan sisa ya benar. Jika jawaban benar bernilai 4, jawaban salah bernilai -1, dan tidak dijawab benilai 0. Maka nilai ujian siswa tersebut adalah ...

a. 54 c. 56
b. 55 d. 57

3) Ibu memiliki uang sebesar Rp540.000. Setiap hari ibu membelanjakan uang sebesar Rp42.000. Pada hari ke-12, ibu masih memiliki uang sebanyak...

a. Rp36.000 c. Rp42.000
b. Rp38.000 d. Rp43.000

4) Terdapat tiga bilangan :

a) $33^2 - 3^2$ c) 36×35

b) $8^2 + 296$

Bilangan apa saja yang faktor persekutuan dari ketiga bilangan tersebut? (jawaban lebih dari satu)

a. $2^3 \times 3^3 \times 7$
b. $2^2 \times 3^2 \times 7$
c. $2^2 \times 3^2 \times 5$
d. $2 \times 3^2 \times 5$

5) Diketahui 9 x (2m - 1) = 63. Invers dari m adalah ...

a. 4 c. 7
b. -4 d. -7

2 Persamaan dan Pertidaksamaan Linear Satu Variabel serta Persamaan Linear Dua Variabel

MATERI

Persamaan Linaer Satu Variabel

Sistem Persamaan Linear Satu Variabel adalah memuat variabel berpangkat satu dan ditandai dengan tanda "=" atau sama dengan

Contoh

- $x - 2 = 5 \rightarrow$ *variabelnya hanya x*
- $y + 3 = -2 \rightarrow$ *variabelnya hanya y*

Persamaan yang Ekuivalen

Persamaan ekuivalen adalah dua persamaan yang memiliki penyelesaian sama. Lambangnya adalah "⇔". Cara memperolehnya adalah :

a. Menambah atau mengurangi kedua ruas dengan bilangan yang sama.
   Contoh:
   $x - 8 = 2$
   $\Leftrightarrow x - 8 + 8 = 2 + 8$
   $\Leftrightarrow x = 10$
   Jadi, $x = 10$ adalah penyelesaian dari $x - 8 = 2$

b. Mengalikan atau membagi kedua ruas dengan bilangan yang sama.
   Contoh:
   $8x = 32$
   $\Leftrightarrow (8/8)\ x = (32/8)$
   $\Leftrightarrow x = 4$
   Jadi, $x = 4$ adalah penyelesaian dari $8x = 32$.

Pertidaksamaan Linear Satu Variabel

Pertidaksamaan Linear Satu Variabel ditandai oleh tanda < (kurang dari), > (lebih dari), ≤ (kurang dari sama dengan) dan ≥ (lebih dari sama dengan). Untuk menyelesaikan pertidaksamaan Linear Satu Variabel, lebih mudah kita menggunakan metode mencari persamaan ekuivalen yang paling sederhana. Cara nya sebagai berikut :

1. Menambah atau mengurangi kedua ruas dengan bilangan yang sama
2. Mengali atau membagi kedua ruas dengan bilangan yang sama. *Bila bilangan yang digunakan untuk mengali atau membagi kedua ruas adalah bilangan negatif maka tanda pertidaksamaan harus dibalik.*

Contoh :

$5x - 4 > x - 8$

$\Leftrightarrow 5x - 4 + 4 > x - 8 + 4$

$\Leftrightarrow 5x > x - 4$

$\Leftrightarrow 5x - x > x - x - 4$

$\Leftrightarrow 4x > -4$

$\Leftrightarrow x > -1$

Jadi, $x > -1$ adalah penyelesaian dari $5x-4>x-8$.

Bila digambarkan pada garis bilangan sebagai berikut :

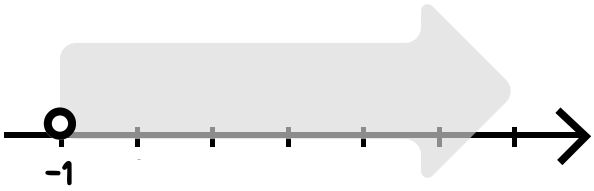

Sistem Persamaan Linear Dua Variabel

Persamaan Linear Dua Variabel memiliki bentuk umum yaitu $ax + by = c$. Himpunan penyelesaiannya adalah (x,y). Sistem Persamaan Linear Dua Variabel memiliki satu penyelesaian

Himpunan Penyelesaian dapat dilakukan dengan empat cara berikut

a. Grafik

Contoh :

Tentukan himpunan penyelesaian dari

$x + y = 4$

$2x - y = 2$

Penyelesaian

c. Eliminasi

Caranya, eliminasi salah satu variabel terlebih dahulu dengan menyamakan koefisien dari variabel tersebut.

Contoh :

Misalkan kita akan mengeliminasi x, maka :

$$\begin{array}{lll} x + y = 4 & (x2) & 2x + 2y = 8 \\ 2x - y = 2 & (x1) & \underline{2x - y = 2 \ -} \\ & & 3y = 6 \\ & & y = 2 \end{array}$$

Selanjutnya, kita eliminasi y.

$$\begin{array}{l} x + y = 4 \\ \underline{2x - y = 2 \ +} \\ 3x = 6 \\ x = 2 \end{array}$$

Jadi, himpunan penyelesaian dari x + y = 4 dan 2x - y = 2 adalah (2,2)

d. Eliminasi dan Subtitusi

Contoh :

Misalkan kita akan mengeliminasi y,

$$\begin{array}{l} x + y = 4 \\ \underline{2x - y = 2 \ +} \\ 3x = 6 \\ x = 2 \end{array}$$

Setelah diperoleh x = 2, subtitusikan ke salah satu persamaan

$$\begin{array}{l} x + y = 4 \\ \Leftrightarrow (2) + y = 4 \\ \Leftrightarrow y = 2 \end{array}$$

Jadi, himpunan penyelesaian dari x + y = 4 dan 2x - y = 2 adalah (2,2)

SUPER SOAL BAB 2

1) Harga buku adik 3 kali harga buku kakak. Harga buku adik Rp30.000 lebih mahal dari harga buku kaka. Harga buku kaka adalah ...

a. Rp 25.000
b. Rp 15.000
c. Rp 45.000
d. Rp 30.000

2) Di toko alat tulis, Tuti membeli 2 pensil dan 3 buku tulis seharga Rp15.500. Di toko yang sama, Lina membeli 4 pensil dan 1 buku tulis seharga Rp13.500. Bila Putri membeli 1 buah pensil dan 2 buku tulis di toko tersebut, Putri harus membayar sebesar ....

a. Rp 6.000
b. Rp 7.000
c. Rp 8.500
d. Rp 9.500

3) Jumlah dua bilangan genap berurutan adalah 30. Bilangan ganjil yang terletak di antara dua bilangan genap adalah ...

a. 13
b. 15
c. 17
d. 11

4) Keliling persegi panjang adalah 108cm. Panjang dikurangi lebar adalah 4 cm. Luas persegi panjang adalah ... meter persegi

a. 684
b. 524
c. 696
d. 725

5) Suatu model kerangka balok terbuat dari kawat dengan ukuran panjang (x+5)cm, lebar (x-2)cm, dan tinggi x cm. Panjang seluruh kawat adalah 132 cm. Ukuran panjang balok adalah ... cm

a. 15
b. 10
c. 8
d. 12

3 Operasi Hitung Aljabar

MATERI

Bentuk Aljabar

Bentuk aljabar terdiri atas variabel, konstanta, kombinasi keduanya, melalui berbagai operasi seperti pejumlahan, pengurangan, perkalian, pembagian dan operasi campuran.

Contoh:

- $6a + b - c$
- $3x^2 + x$

Istilah yang harus dipahami adalah :

1. Variabel, pengganti bilangan yang masih dicari. Misalnya dilambangkan a, b, x, y dan lain-lain.
2. Konstanta, bagian dari bentuk aljabar yang tidak memuat variabel.
3. Koefisien, konstanta dari suatu suku.
4. Suku, variabel beserta koefisien atau konstanta pada bentuk aljabar yang dipsahkan oleh tanda operasi hitung.

Contoh:

$2x + 3y \rightarrow$ bersuku dua

$3a - b - c \rightarrow$ bersuku tiga

Jika suku > 2 disebut suku banyak atau polinom. Suku sejenis memiliki variabel yang sama.

Faktorisasi Bentuk Aljabar

Faktorisasi bentuk aljabar adalah menyatakan penjumlahan menjadi suatu bentuk perkalian dari bentuk aljabar tersebut.

Berikut ini adalah contoh pemfaktoran bentuk aljabar yang dapat kalian ingat.

Contoh :

- $x^2 + 2xy + y^2 = (x + y)^2$
- $x^2 - 2xy + y^2 = (x - y)^2$
- $x^2 - y^2 = (x - y)(x + y)$
- $x^3 + 3x^2y + 3xy^2 + y^3 = (x + y)$
- $x^3 - 3x^2y + 3xy^2 - y^3 = (x - y)$

Jenis pemfaktoran yang lain sebagai berikut :

1. **Bentuk $ax^2 + bx + c$ dengan $a = 1$**
   Untuk memfaktorkan bentuk ini dilakukan dengan cara mencari dua bilangan real yang hasil kalinya sama dengan c dan jumlahnya sama dengan b.

Bentuk $ax^2 + bx + c$ =

$(x + p)(x + q)$, dengan

$p + q = b$ dan $pq = c$

Contoh :

$x^2 + 6x + 8 = (x + 4)(x + 2)$
Diperoleh b = 6 dan c = 8.
8 = 4 x 2 → faktornya 4 & 2
6 = 4 + 2

$x^2 + x - 12 = (x - 3)(x + 4)$
Diperoleh b = 1 dan c = -12
-12=4 x(-3) → faktor 4 & 3
1 = 4 + (-3)

Periksalah apakah p + q = b dan pq = c. Sehingga pemfaktoranmu benar.

2. **Bentuk $ax^2 + bx + c$ dengan $a \neq 1, a \neq 0$**
   Memfaktorkan bentuk tersebut dapat dilihat pada cara berikut :

Bentuk $ax^2 + bx + c$ =

$ax + px + qx + c$

atau

Bentuk $ax^2 + bx + c$ =

$1/a\ (ax + m)(ax + n)$

m x n = a x c dan m + n = ba

SUPER SOAL BAB 3

1) Pemfaktoran dari
$\frac{1}{16}a^2 - 36$
adalah .....

2) Hasil dari $\frac{x^4 - 1}{x^2 + x} = \ldots$

3) Pemfaktoran dari
$1,4x^2 - 0,4x - 1,8$
adalah ...

3) Diketahui luas segitiga adalah $(2x^2 + 13x + 15)cm^2$. Panjang alasnya adalah $(2x + 3)cm$. Maka Tingginya adalah .... cm

4) Diketahui luas Persegi panjang=$(12x^2 - 25x + 12)cm^2$ Jika Panjangnya adalah $(4x - 3)cm$. Maka lebarnya adalah .... cm

5) Bentuk sederhana dari
$\frac{25 - 4a^2}{10 - 4a^2}$

6) Bentuk aljabar dari
$\frac{1}{4}x^4 - 2x^2y^2 + 4y^4$
Jika difaktorisasikan maka akan menjadi ?

7) Hasil dari $\frac{2x^2 - 12x - 32}{4x^2 - 16} = \ldots$

8) $\frac{2x^2 - 6x - 36}{x^2 - 9x + 18} : (2x + 6) = \ldots$

9) $\frac{x}{x^2 + 5x + 6} \times \frac{x + 3}{x^2 - 2x} = \ldots$

10) Jika:
a = 3(2p - q - 6)
b = 2 (p + 2q + 8)
Maka a + 2b adalah ....

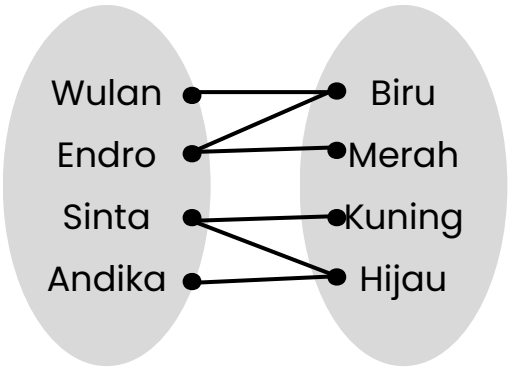

2. Diagram Cartesiusnya adalah sebagai berikut :

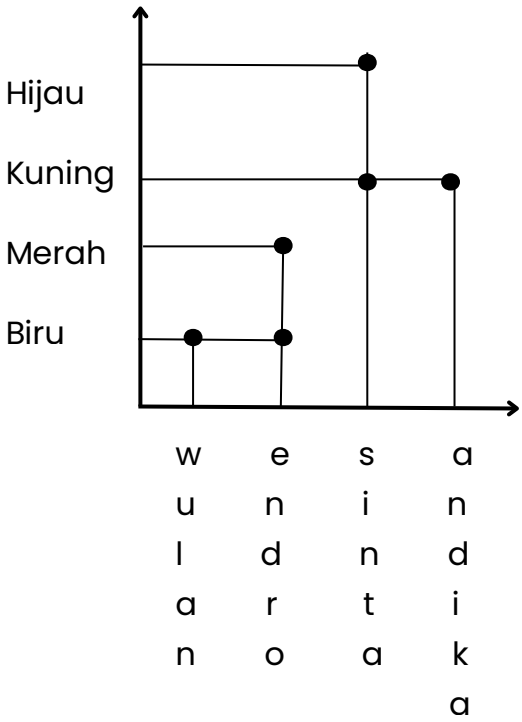

3. Himpunan pasangan berurutannya adalah {(Wulan,Biru) (Endrro,Merah), (Endro,Biru), (Sinta,Kuning), (Sinta,Hijau), (Andika,Hijau)}.

Jika x ∈ A dan y ∈ B maka produk cartesius A ke B adalah himpunan pasangan berurutan (x,y). Bila dituliskan :

A x B= {(x,y) | x ∈ A dan y ∈ B)}

Contoh

Misalkan,
A = {p,q,r} dan B = {0,1}. Tentukanlah A x B !

Penyelesaian

A X B	0	1
p	(p,0)	(p,1)
q	(q,0)	(q,1)
r	(r,0)	(r,1)

Jadi, A X B adalah {(p,0), (p,1), (q,0), (q,1), (r,0), (r,1)}

Banyaknya produk cartesius dapat dihitung menggunakan rumus :
n(A X B)=n(B X A)=n(A) X n (B)

<u>Catatan</u>

A X B ≠ B X A

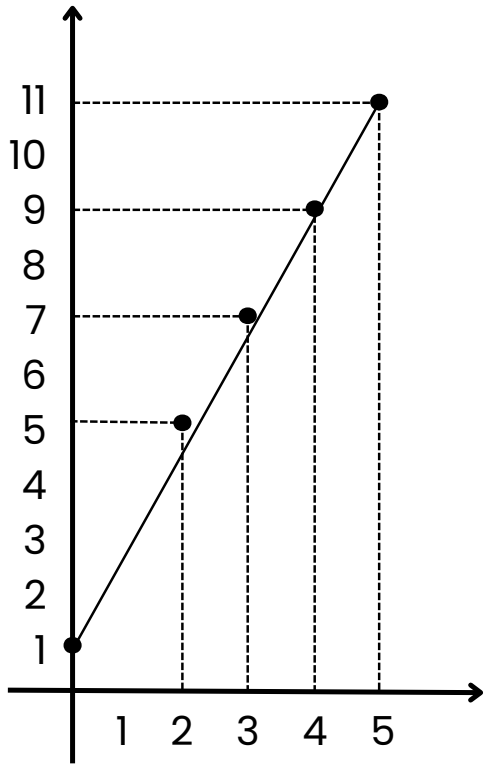

Selanjutnya, kita akan mempelajari cara menghitung banyak pemetaan dan mencari nilai fungsi

1. **Banyaknya Pemetaan**
   Jika banyaknya anggota A = n(A) dan banyaknya anggota B = n(B), maka :
   - Banyaknya pemetaan dari himpunan A ke B adalah $n(B)^{n(A)}$
   - Banyaknya pemetaan dari himpunan B ke A adalah $n(A)^{n(B)}$

Contoh
Diketahui P = {k,l,m,n} dan Q = {1,2,3}. Hitunglah banyaknya pemetaan yang mungkin dari :
a) P ke Q
b) Q ke P

Penyelesaian
n(P) = 4 dan n(Q) = 3
1. Banyaknya pemetaan yang mungkin dari P ke Q adalah 81.
2. Banyaknya pemetaan yang mungkin dari Q ke P adalah 64.

2. **Menghitung nilai fungsi**
   Untuk menghitung nilai fungsi, kalian cukup mensubtitusikan nilai yang diketahui ke dalam f(x)

Contoh 1
Didefinisikan suatu fungsi $f(x) = 3x^2 - 2$. Jika domainnya adalah {-1,0,2}. Tentukanlah f(x) dari domain tersebut!

Penyelesaian
$x = -1 \rightarrow f(-1) = 1$
$x = 0 \rightarrow f(0) = -2$
$x = 2 \rightarrow f(2) = 10$

SUPER SOAL BAB 4

1) Jika n(A) = 7 dan n(B) = 8, banyaknya produk castesius dari A ke B adalah ...

a. 35
b. 42
c. 54
d. 56

2) Diketahui f(x) = $\frac{3}{a}x + 6$ dan

f(6) = 15. Nilai a adalah...

a. 1
b. 2
c. 3
d. 4

3) Ditentukan A = {0, 2, 4} dan B = {1, 2, 3}. Jika relasi dari A ke B "lebih dari" maka himpunan pasangan berurutan ....

a. {(2, 1), (4, 1), (4, 2), (4, 3)}
b. {(1, 0), (2, 0), (3, 0), (4, 0)}
c. {(2, 1), (4, 1), (4, 3), (2, 3)}
d. {(2, 1), (2, 2), (4, 1), (4, 3)}

4) Perhatikan gambar berikut

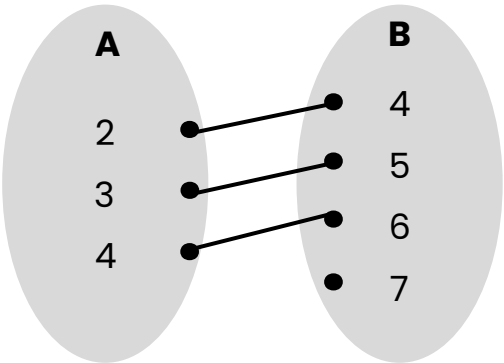

Relasi dari A ke B adalah ...

a. 2x
b. x + 2
c. x + 3
d. x + 5

5) Berikut adalah pernyatan yang benar tentang syarat pemetaan dari himpunan A ke B, yaitu ...
(jawaban lebih dari satu)

a. n(A) = n(B)
b. Setiap anggota A dipasangkan tepat dengan satu pasangan
c. Setiap anggota A harus memiliki pasangan dari anggota B
d. Anggota A dapat memiliki pasangan lebih dari 1 di anggota B

5 Barisan dan Deret Bilangan

MATERI

Pola Barisan Bilangan

Pola barisan bilangan adalah penulisan bilangan yang mengikuti pola-pola tertentu.

1. **Pola garis lurus**
   Suatu bilangan digambarkan dengan noktah.

   Contoh
   • • mewakili bilangan 2.

2. **Pola persegi panjang**
   Penulisan bilangan digambarkan dengan noktah yang membentuk persegi panjang.

   Contoh
   • • •
   • • • mewakili bilangan 6

3. **Pola persegi**
   Penulisan bilangan digambarkan dengan noktah yang membentuk persegi. Bilangan dengan pola persegi, seperti 1, 4, 9, 16, 25, . . .

   Contoh
   • •
   • • mewakili bilangan 4

4. **Pola segitiga**
   Penulisan bilangan digamabrkan dengan noktah yang membentuk segituga.

   Contoh
   •
   • • mewakili bilangan 3

2. **Barisan Geometri**
Barisan geometri memiliki rasio tetap antara dua suku yang berurutan. Selisihnya disebut rasio yang dilambangkan r.

Contoh

a. 2, 4, 8, 16, 32, ...
Barisan di atas memiliki rasio sebagai berikut

$$r = \frac{4}{2} = \frac{8}{4} = \frac{16}{8} = 2$$

Karena r > 1, maka disebut barisan geometri naik.

a. 96, 48, 24, 12, ...
Barisan di atas memiliki rasio sebagai berikut

$$r = \frac{48}{96} = \frac{24}{48} = \frac{12}{24} = \frac{1}{2}$$

Karena r < 1, maka disebut barisan geometri turun.

Suku ke n barisan geometri adalah :

$$U_n = a\,r^{n-1}$$

a = Suku pertama = U_1
r = rasio

Deret Bilangan

Deret bilangan adalah jumlah suku-suku suatu barisan bilangan.

1. **Deret Aritmatika**
Untuk mengetahui jumlah suku-suku deret aritmatika atau S_n , gunakan rumus :

$$S_n = \frac{n}{2}(a + u_n)$$

atau

$$S_n = \frac{n}{2}(2a + (n-1)b)$$

a = Suku pertama = U_1
b = beda

Contoh
Barisan aritmatika adalah 2, 7, 12, 17, 22, 27, ... U_{10} .
Tentukan :
a. U_{10}
b. S_{10}

Penyelesaian
Diperoleh :
a = 2
n = 10
b = 7 - 2 - 5

SUPER SOAL BAB 5

1) Diketahui barisan geometri 2 + 4 + 8 + ... + p = 510. Bilangan p seharusnya ....

a. 256
b. 64
c. 128
d. 192

2) Dalam suatu baris geometri diketahui suku ke 3 adalah 20, dan suku ke lima adalah 80. Maka jumlah deret tujuh suku pertama nya adalah ...

a. 840
b. 796
c. 682
d. 635

3) Dalam sebuah deret geometri, diketahui nilai jumlah 10 suku pertama nya adalah 1.023, jika rasio pada deret tersebut adalah 2, suku pertama deret tersebut adalah

a. 1/2
b. 1
c. 2
d. 4

4) Sebuah deret geometri memiliki U2 = 12 dan U4 = 108. Nilai dari S6 adalah ...

a. 1.256
b. 1.274
c. 1.482
d. 1.456

5) Jika x - 4, x - 2, dan x + 4 adalah tiga suku berurutan dalam geometri, nilai x adalah ...

a. 5
b. 4
c. 3
d. 2

6) Pada awal bekerja, pak Adi menerima gaji sebesar Rp1.500.000 per bulan. Setiap tahun gaji pak Adi sebesar Rp500.000. Gaji pak Adi 7 tahun mendatang adalah ...

a. Rp5.000.000
b. Rp4.500.000
c. Rp 5.500.000
d. Rp4.000.000

6 Geometri dan Pengukuran

MATERI

A. Garis

Garis adalah kumpulan titik-titik yang jaraknya saling berdekatan satu sama lain. Garis tidak berujung dan berpangkal. *Ruas garis* adalah kurva lurus yang memiliki pangkal dan ujung

Garis:



Ruang Garis:

B. Kedudukan Dua Garis

Berikut ini adalah macam-macam kedudukan dua garis.

1. Dua garis Jajar

Dua garis yang sejajar dan terletak pada bidang datar tidak akan pernah berpotongan. Notasinya adalah "//".

<u>Contoh:</u> garis a // b

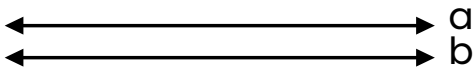

Sifat garis sejajar sebagai berikut.

3. **Dua garis berimpit**

Dua garis berimpit terletak pada satu garis lurus.

Contoh:

garis AB dan CD



4. **Dua garis bersilangan**

Dua garis dikatakan bersilangan bila tidak terletak pada satu bidang datar dan tidak akan berpotongan jika diperpanjang.

Contoh:

garis AC dan HF

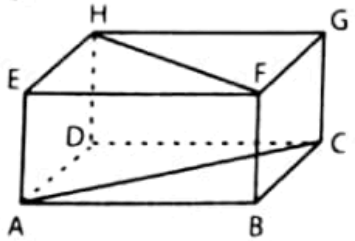

Menurut bentuknya, garis dibedakan menjadi 2 macam, yaitu garis vertikal (*kiri*) dan horizontal (*kanan*).

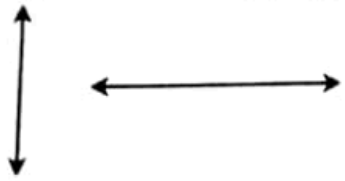

C Sudut

Sudut adalah pertemuan dua ruas garis yang bertemu pada satu titik.

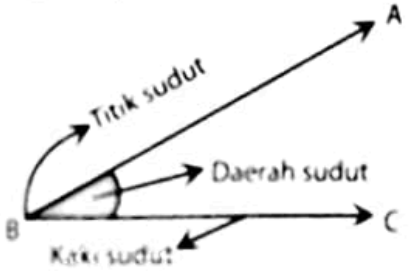

- Garis AB dan BC disebut *kaki sudut*
- Titik B disebut *titik sudut*.
- Daerah ABC disebut *daerah sudut*.

Besar sudut dinyatakan dengan satuan derajat (°). Berdasarkan besar sudutnya sudut dibedakan menjadi empat macam

1. **Sudut lancip**

Sudut lancip adalah sudut yang besarnya antara 0° – 90°. Misalnya, sudut 30°, 70°, 85°.

Contoh:

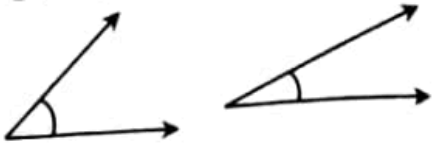

2. **Sudut tumpul**

Sudut tumpul adalah sudut yang besarnya antara 90° – 180°. Misalnya sudut 120°, 160°, 150°.

Contoh:

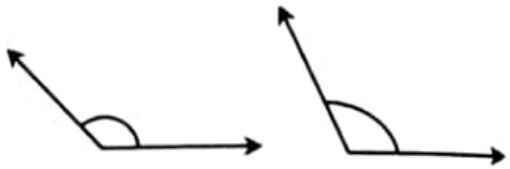

3. **Sudut siku-siku**

Sudut siku-siku adalah sudut yang besarnya 90°.

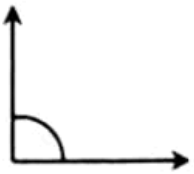

4. **Sudut lurus**

Sudut lurus adalah sudut yang besarnya 180°.

TRY OUT PAKET 1

1. Tabel berikut menunjukkan operasi hitung bilangan bulat beserta hasil operasinya.

NO.	**Operasi Hitung**	**Hasil Operasi**
1.	-14 + 9 : 0,9 - 10	-14
2.	20 + (-10) x $\frac{1 - 13}{2}$	2
3	18 + (-18) : (-6) + 4	20
4.	-8 -10 x 20% - 5	15

Pasangan operasi hitung dan hasilnya yang benar ditunjukkan oleh nomor .....

A. 1 dan 2
B. 1 dan 3
C. 2 dan 3
D. 2 dan 4

2. Harga setengah kilogram cabai rawit pada hari ini adalah Rp35.000. Beri tanda centang pada kolom Benar atau Salah untuk setiap pernyataan berikut.

Pernyataan	Benar	**Salah**
Jika seseorang membeli kg cabai rawit, ia perlu membayar Rp. 87.500		
Jika seseorang membeli 1 ons cabai rawit, ia perlu membayar Rp. 8.000		
Dengan uang Rp. 20.000, seseorang dapat membeli cabai rawit sebanyak		

3. Setiap minggu, seorang pembalap diwajibkan berlatih menempuh jarak yang tetap dengan kecepatan berbeda-beda. Hasilnya seperti pada tabel berikut.

Minggu ke-	**1**	**2**	**3**	**4**
Kecepatan rata - rata (km/jam)	45	60	y	75
Waktu tempuh (jam)	x	1,5	3	z

TRY OUT PAKET 1

Misalnya, jika seseorang lahir pada hari Senin dengan hari pasarannya Pon, maka wetonnya adalah Senin Pon. Dua hari berikutnya adalah Selasa Wage dan Rabu Kliwon, begitu seterusnya.

5. Misalkan weton tiga hari yang lalu adalah Rabu Legi.
Berilah tanda centang pada pernyataan yang bernilai benar. Jawaban benar mungkin lebih dari satu.

	Weton tiga hari yang lalu akan sama dengan weton 32 hari ke depan
	Weton minggu depan adalah sabtu pahing
	Delapan hari dari sekarang, hari pasarannya adalah Wage

6. Diketahui Ardi lahir 74 hari yang lalu. Jika hari ini adalah Sabtu Kliwon, weton Ardi adalah
A. Senin Legi
B. Selasa Legi
C. Senin Pahing
D. Selasa Pahing

7. Diketahui 45 liter beras cukup untuk makan orang dalam 5 hari. Dalam suatu acara kemah, dihabiskan 72 liter beras dalam sehari. Dengan anggapan bahwa setiap orang memiliki porsi makan yang sama besar, banyaknya orang yang mengikuti acara kemah tersebut adalah ..... orang.
A. 8
B. 16
C. 80
D. 160

8. Perhatikan denah rumah berikut :

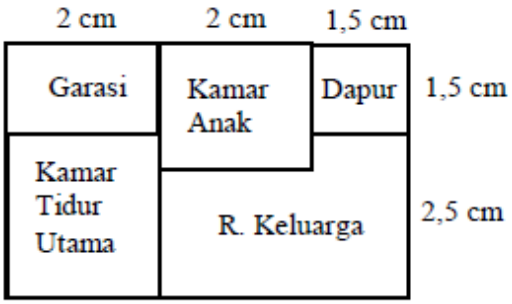

Skala = 1 : 150

Selisih luas garasi dan kamar tidur utama pada ukuran yang sebenarnya adalah ..... m^2.
A. 3,0
B. 3,5
C. 4,0
D. 4,5

TRY OUT PAKET 1

13. Desain jembatan yang tepat sangat penting untuk memperkuat struktur karena menentukan kestabilan, ketahanan, dan keselamatan jembatan dalam menghadapi beban dan kondisi lingkungan. Salah satu contoh desain jembatan tampak pada gambar.



Bagian rangka jembatan tersebut dapat digambarkan dengan sketsa garis seperti berikut.

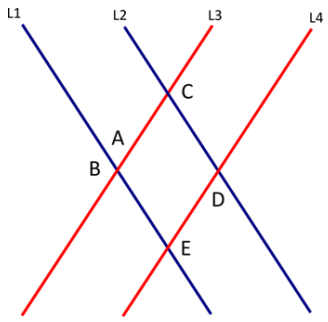

Diketahui garis L1 sejajar dengan L2 sedangkan L3 sejajar dengan L4. Jika besar sudut A adalah 50" berilah tanda centang pada pernyataan yang bernilai benar terkait besar sudut yang lain. Jawaban benar mungkin lebih dari satu.

- Besar sudut D adalah 50
- Besar sudut C dapat ditentukan dengan menggunakan sifat sudut berpelurus, yaitu 50
- Sudut B dan E sama besar, yaitu 130
- Jumlah besar sudut D dan E kurang dari 180

14. Sebidang kebun memiliki bentuk seperti huruf L. Bentuknya tersusun dari 2 buah persegi panjang yang tidak tumpang-tindih. Kebun itu memiliki keliling . Jika hanya ada ukuran sisi kebun tersebut, maka luas kebun sama dengan M2

A. 256
B. 512
C. 812
D. 1.024

15. Julvina memiliki kawat 9 untuk membuat limas dari kawat. Alas limas berbentuk persegi dengan panjang sisi 15 cm dan panjang rusuk tegaknya 19 cm. Jika seluruh kawat digunakan, maka panjang kawat tersisa ..... cm.

A. 24
B. 42
C. 66
D. 84

TRY OUT PAKET 1

Kombinasi Usia	Mungkin	Tidak mungkin
35, 40, 40, 40, 45		
35, 38, 40,42, 45		
30,35, 40, 45, 50		

19. Tabel berikut menunjukkan operasi hitung bilangan bulat beserta jawabannya

Operasi Hitung	Hasil Operasi
1. $-15+9\div 0,3-10$	a. 5
2. $25+(-20)\times 12-15$	b. 0
3. $5+(-15)\div -3-25$	c. -3
4. $-10-15\times 20\%+10$	d. -5

Pasangan yang tepat antara operasi hitung dengan hasilnya adalah....
(A) 1–a, 2–c, 3–b, 4–d
(B) 1–a, 2–b, 3–d, 4–c
(C) 1–c, 2–a, 3–d, 4–b
(D) 1–c, 2–a, 3–b, 4–d

20. Paman memiliki kebun jeruk dengan luas 1 hektar. Setiap 6 bulan, paman dapat memanen jeruk sebanyak 45 kuintal dan 1 pohon jeruk mampu menghasilkan sekitar 30 kg jeruk. Agar hasil panen selalu maksimal, paman memberi pupuk untuk setiap pohon sebanyak 200 gram setiap bulan. Banyak pupuk yang dibutuhkan paman selama 6 bulan adalah....
(A) 30 kg
(B) 120 kg
(C) 180 kg
(D) 200 kg

21. Pak guru membuat permainan untuk materi operasi hitung bilangan bulat dengan menggunakan bola berwarna, bola berwarna merah diberi skor -2, bola berwarna kuning diberi skor 2, dan bola hijau diberi skor 5. Setiap kelompok mengambil 10 bola secara acak, hasil pengambilan setiap kelompok ditulis dalam tabel berikut.

KELOMPOK	BOLA MERAH	BOLA KUNING	BOLA HIJAU
KELOMPOK 1	4	3	3
KELOMPOK 2	3	5	2
KELOMPOK 3	3	4	3
KELOMPOK 4	4	4	2

Setiap pengambilan bola dikalikan dengan skor dari setiap warna bola, kemudian hasilnya dijumlahkan.
Berdasar keterangan tersebut, manakah pernyataan yang benar?

TRY OUT PAKET 1

25. Diketahui sistem persamaan linear dua variabel:
{3a+2b=162a+b=9
Nilai 2a-b adalah...
(A) -3
(B) -1
(C) 1
(D) 3

1 TEKS INFORMASI

MATERI

Pengertian Teks Informasi

Teks informasi adalah teks yang berisi paparan fakta, konsep, atau prosedur mengenai suatu topik tertentu yang disampaikan secara objektif dan sistematis. Teks ini bertujuan memberikan pengetahuan kepada pembaca tentang suatu fenomena, peristiwa, objek, atau cara melakukan sesuatu berdasarkan data yang akurat.

Teks informasi dapat membahas berbagai topik yang bersifat :

- Lokal ~ misalnya kondisi lingkungan di daerah setempat
- Nssional ~ seperti kebijakan dan peristiwa tingkat negara
- Global ~ misalnya perubahan iklim dunia atau perkembangan teknologi internasional.

Teks Informasi bisa pula disajikan dalam bentuk :

- Teks tunggal ~ hanya berupa paragraf penjelasan
- Teks jamak ~ gabungan paragraf dengan elemen lain seperti grafik, tabel, denah, peta, diagram, atau foto

Tujuan Teks Informasi

1. Memberikan pengetahuan
   - Teks ini berusaha menambah wawasan pembaca tentang suatu fenomena
2. Menyampaikan kejadian atau keadaan secara faktual
   - Tidak menambahkan Opini pribadi melainkan berdasarkan fakta
3. Menjelaskan proses atau prosedur
   - Teks informasi juga bisa berupa penjelasan tahapan atau langkah kegiatan

Jenis - Jenis Teks Informasi

1. Teks informasi tunggal
Teks yang hanya memuat paragraf penjelasan tanpa tambahan data visual.
ciri :
- sumber informasi satu arah
- hanya berupa kalimat dan paragraf
- tidak ada grafik, tabel, atau diagram

contoh : Artikel tentang manfaat tanaman obat
2. Teks informasi jamak
Teks yang memadukan lebih dari satu bentuk penyajian informasi
biasanya terdiri dari :
- paragraf penjelasan
- grafik
- tabel
- peta
- infografis
- diagram
- foto

tujuannya untuk memperkaya dan memperjelas pemahaman pembaca
contoh :
Laporan perkembangan ekonomi yang terdiri dari :
- grafik pertumbuhan ekonomi
- tabel jumlah ekspor
- paragraf penjelasan penyebab kenaikan

Kaidah kebahasaan teks informasi

1. Kalimat dekoratif
kalimat yang menyatakan informasi, bukan perintah atau ajakan.
2. Penggunaan istilah teknis
disesuaikan dengan bidang yang di bahas
contoh : "erosion" , "pertumbuhan ekonomi" , relativitas kimia"
3. Kata hubung (konjungsi) kausalitas
contoh :
- sebab
- karena itu
- akibatnya
- sehingga
- oleh karena

4. Kata rujukan
untuk menghindari pengu;angan
- ini
- itu
- tersebut
- mereka

5. Data kuantitatif
angka, persentase, statistik

SUPER SOAL BAB 1

bacalah kutipan berikut :
" Indonesia dikenal sebagai negara *megabiodiversitas* , memiliki kekayaan flora dan fauna terbesar kedua di dunia setelah Brasil"

1. Informasi utama dalam teksdi atas adalah .....
A. Indonesia memiliki banyak pulau
B. Brasil lebih kaya dari Indonesia
C. Indonesia negara dengan kekayaan flora dan fauna
D. Fauna Indonesia terancam punah

"Penggunaan energi terbarukan dapat membantu mengurangi ketergantungan pada energi fosil sekaligus menekan emisi karbon."

2. Apa tujuan utama pernyataan tersebut?
A. Menjelaskan bahaya energi fosil
B. Mengajak beralih ke energi terbarukan
C. Menyebutkan contoh nergi alternatif
D. Membandingkan energi fosil dan terbarukan

bacalah informasi berikut :
Artikel A : Pendidikan digital meningkatkan literasi teknologi siswa."
Artikel B : Penggunaan gawai berlebihan dapat menurunkan konsentrasi belajar."

3. Hubungan isi kedua artikel tersebut adalah ....
A. Bertolak belakang
B. Saling melengkapi
C. Tidak berkaitan
D. Sama persis
E. Netral tanpa pengaruh

4. "Rina termenung di jendela, menanti ayahnya yang tak kunjung pulang sejak dua tahun lalu. Setiap senja, ia masih berharap."
Tema utama kutipan tersebut adalah ....

2 Makna Kata

MATERI

Pengertian Makna Kata dan Makna Kalimat

Makna Kata adalah arti atau pengertian suatu kata sesuai dengan konteks penggunaannya dalam kalimat atau teks.
Makna kalimat adalah pemahaman keseluruhan pesan yang ingin disampaikan penulis melalui susunan kata dalam sebuah kalimat.

Menentukan makna kata dan kalimat berarti :

- memahami arti kata secara tepat berdasarkan konteks
- menghubungkan kata tersebut dengan kalimat yang memuatnya
- dan menangkap maksud keseluruhan kalimat yang digunakan dalam teks.

Jenis - Jenis Makna Kata

1. Makna leksikal
makna asli atau makna sebenarnya sesuai kamis
contoh : "mata" = bagian tubuh untuk melihat

2. Makna kontekstual
makna kata yang berubah sesuai konteks kalimat.
contoh : "mata air" = sumber air , bukan alat untuk melihat

3. Makna denotatif
Makna yang apa adanya, tidak mengandung nilai rasa.
Contoh : " Ibu membeli sayur di pasar."

4. Makna konotasi
makna yang mengandung nilai rasa, tambahan atau kiasan
contoh : "Dia memiliki hati emas". (baik, penyayang)

SUPER SOAL BAB 2

1. Secara harfiah, ulasan hutan mangrove memang hanya sekitar 3% dari luas seluruh kawasan hutan dan 25% dari seluruh hutan mangrove dunia. Namun jika dilihat dari perannya, kawasan vegetasi ini pantas diperhitungkan.Oleh karena itu, pemerintah telah mengeluarkan peraturan mengenai peruntukkan hutan mangrove, yakni sebagai hutan konservasi, hutan produksi, dan hutan bagi penggunaan lain.

Makna kata konservasi dalam paragraf tersebut adalah ....
a. Perlindungan
b penjagaan
c. Penataan
d. Pengelolaan

2. Mengkudu sejak lama dikenal sebagai obat rakyat. Mengkudu memiliki sejarah berabad-berabad digunakan sebagai obat gosok atau komoditas kayu yang dimanfaatkan oleh penduduk asli di Pasifik Pan-Tropis. Buah yang memiliki nama Morinda Citrifolia memiliki sejarah sukses pada jaman modern sebagai komoditas herbal yang sangat laku dan mendatangkan keuntungan. Mengkudu tumbuh terutama di daerah tropis, Polinesia, Perancis, dan Hawali.

Makna kata komoditas yang digunakan dalam paragraf tersebut adalah....
a. barang baku
B benda niaga
C. barang ekspor
D. barang pilihan
E. benda berharga

3. Produksi film nasional kini semakin meningkat dengan tema yang beragam. Bisa dikatakan film layar lebar telah menunjukkan kemajuan yang cukup dengan adanya beragam [...] dan mulai berkurangnya film yang bernuansa horor. Menteri Pariwisata dan Ekonomi Kreatif mengapresiasi para sineas film tanah air yang semakin berkreasi dan cerita yang menarik dalam menciptakan film.

<u>Istilah</u> yang tepat untuk melengkapi bagian rumpang teks tersebut adalah...
A. Genre
B. Gengsi
C. Tema
D. Latar

3 Ide Pokok

MATERI

Pengertian Ide Pokok

Ide pokok adalah gagasan utama atau inti pembahasan yang ingin disampaikan penulis dalam sebuah paragraf.
Ide pokok sering disebut juga:

- gagasan utama,
- ide utama,
- pikiran pokok,
- main idea.

Ide pokok menjadi dasar bagi seluruh kalimat dalam paragraf. Kalimat-kalimat lainnya disebut kalimat penjelas, yang bertugas mendukung dan menjelaskan ide pokok.

Ciri - Ciri Ide Pokok

1. IMengandung informasi terpenting dalam paragraf.
2. Tidak bergantung pada kalimat lain untuk dipahami.
3. Dapat berdiri sendiri sebagai inti bacaan.
4. Didukung oleh semua kalimat penjelas.
5. Biasanya berbentuk pernyataan umum, bukan contoh atau rincian.

Letak Ide Pokok dalam Paragraf

1. Paragraf Deduktif
→ Ide pokok berada di awal paragraf.
Ciri: kalimat pertama bersifat umum, diikuti penjelasan.
Contoh:
Indonesia memiliki banyak pulau indah yang menarik wisatawan. Pulau Bali dikenal karena budaya dan pantainya. Pulau Lombok terkenal dengan pesona alamnya. Pulau Raja Ampat menjadi surga bagi penyelam.
Ide pokok: Indonesia memiliki banyak pulau indah yang menarik wisatawan.

2. Paragraf Induktif
→ Ide pokok berada di akhir paragraf.
Ciri: awal paragraf berisi fakta atau contoh, simpulan di akhir.

Contoh 2 (Induktif)
Sampah plastik sulit terurai dan dapat mencemari laut. Banyak hewan laut terancam karena memakan sampah plastik. Jika dibiarkan terus menerus, kerusakan lingkungan akan semakin parah. Oleh karena itu, penggunaan plastik harus dikurangi.
Ide pokok: Penggunaan plastik harus dikurangi.

Contoh 3 (Campuran)
Perpustakaan sekolah memiliki banyak manfaat bagi siswa. Tempat ini menyediakan berbagai buku yang dibutuhkan siswa. Selain itu, perpustakaan juga menjadi tempat belajar yang nyaman. Maka dari itu, perpustakaan sangat penting bagi siswa.
Ide pokok: Perpustakaan sangat penting bagi siswa.

Contoh 4 (Deskriptif)
Di tepi laut itu, ombak berkejaran saling menyusul. Pasir putih membentang luas, lembut seperti tepung. Angin berhembus membawa aroma laut yang khas. Cahaya matahari pagi membuat air laut terlihat berkilau.
Ide pokok: Gambaran keindahan suasana pantai.

Perbedaan Ide Pokok dan Kalimat Utama

Ide Pokok	**Kalimat Utama**
Inti pembahasan paragraf (gagasan).	Kalimat yang berisi ide pokok.
Bisa ditulis dalam bentuk apa saja.	Bentuknya harus berupa kalimat.
Lebih umum dan luas.	Lebih konkret, menjadi kalimat yang lengkap.
Tidak selalu tertulis.	Bisa muncul di awal, akhir, atau campuran.

SUPER SOAL BAB 3

1. Perhatikan paragraf berikut!
Korban virus Covid 19 di Indonesia terus bertambah seiring dengan meningkatnya mobilitas masyarakat saat hari raya Idul Fitri dan Idul Adha. Pemerintah terus berupaya menekan laju mobilitas masyarakat dengan melakukan banyak pembatasan dan penyekatan.
Ide pokok paragraf yang dapat ditemukan dari informasi di atas adalah ....
a. Meningkatnya virus Covid 19 saat hari raya Idul Fitri dan Idul Adha.
b. Pencegahan penyebaran virus Covid 19 saat hari raya Idul Fitri dan Idul Adha.
c. Bertambahnya korban virus Covid 19 di Indonesia akibat peningkatan mobilitas penduduk.
d. Usaha pemerintah untuk mencegah penyebaran virus Covid 19 dengan membuat berbagai pembatasan.

2. Perhatikan paragraf berikut!
Adanya mata pelajaran Teknologi Informasi dan Komunikasi (TIK) di sekolah sangat membantu masyarakat melek teknologi. Terbukti anak-anak usia sekolah dasar sudah banyak yang mampu mengoperasikan komputer. Sayangnya, mata pelajaran ini dianggap tidak penting oleh sebagian besar orang tua murid. Akibatnya, anak-anak tidak memahami penjelasan guru di sekolah dan selalu mendapat nilai rendah.
Pokok pikiran yang dapat ditemukan dari paragraf ini adalah ....
a. Pelajaran TIK membantu mendukung masyarakat yang lebih melek teknologi.
b. Pelajaran TIK tidak penting karena membuat anak-anak mendapat nilai rendah.
c. Masyarakat menjadi melek teknologi karena di sekolah wajib belajar TIK.
d. Orang tua menganggap pelajaran TIK tidak terlalu penting bagi anak-anak.

3. Perhatikan paragraf berikut!
Kucing termasuk salah satu hewan karnivora yang bisa dipelihara. Demikian juga dengan beberapa jenis anjing. Meski keduanya memakan daging dan memiliki taring serta kuku yang tajam, karakter dua hewan ini bisa dijinakkan. Ini membuktikan bahwa tidak semua hewan karnivora itu buas dan berbahaya bagi kehidupan manusia.
Gagasan utama pada paragraf ini yaitu ....
a. kucing adalah hewan karnivora yang bisa dipelihara.
b. Ada beberapa jenis anjing yang bisa dipelihara.

4 Menyimpulkan Isi Teks

MATERI

Pengertian Menyimpulkan Isi Teks

Menyimpulkan isi teks adalah kegiatan menangkap inti atau pokok-pokok isi dari sebuah bacaan, kemudian menuliskannya kembali dalam bentuk kalimat yang lebih ringkas, tanpa mengubah makna asal teks tersebut. Kesimpulan adalah bentuk pemahaman akhir dari isi bacaan.
Kesimpulan bukan menyalin kalimat dalam teks, tetapi merangkum gagasan penting yang ada di teks.

Tujuan Menyimpulkan Isi Teks

1. Mengetahui pesan utama yang ingin disampaikan penulis.
2. Meringkas informasi penting agar lebih mudah diingat.
3. Mengukur pemahaman pembaca tentang isi bacaan.
4. Mengambil poin-poin penting untuk menjawab soal atau membuat laporan.

Unsur-Unsur yang Digunakan untuk Membuat Kesimpulan

Untuk menyimpulkan, kita harus mengenali:
1. Ide pokok
Gagasan utama setiap paragraf.
2. Kalimat penjelas
Informasi pendukung yang memperjelas ide pokok.
3. Informasi penting
Fakta, data, penyebab, akibat, atau langkah yang relevan.
4. Hubungan antarinformasi
Apakah berupa sebab–akibat, perbandingan, urutan, atau penjelasan.

D. Langkah-Langkah Menyimpulkan Isi Teks

1. Baca Teks Secara Keseluruhan
Untuk memahami isi dan maksud penulis.
2. Tentukan Ide Pokok Tiap Paragraf
Karena kesimpulan berasal dari rangkaian ide pokok.

Ciri-Ciri Kesimpulan yang Baik

1. Singkat, padat, dan jelas
2. Mewakili seluruh isi teks
3. Tidak mengubah atau menambah makna
4. Ditulis menggunakan bahasa sendiri
5. Menggunakan kalimat efektif

Kesalahan yang Harus Dihindari dalam Membuat Kesimpulan

1. Menyalin langsung kalimat dari teks
2. Menambah pendapat pribadi
3. Memasukkan contoh yang tidak penting
4. Mengambil hanya satu paragraf, bukan keseluruhan

Menyimpulkan terlalu panjang

Tips Cepat Menyimpulkan Isi Bacaan (Untuk Ujian)

1. Fokus pada pernyataan umum, jangan pada contoh.
2. Baca kalimat pertama dan terakhir setiap paragraf.
3. Temukan kata penghubung seperti:
4. "sebab", "oleh karena itu", "jadi", "akibatnya", "namun".
5. Gunakan peta konsep sederhana (masalah → penyebab → solusi).
6. Latih dengan banyak teks pendek dan panjang.

4. Bacalah dan tentukan simpulan paragraf berikut!
ASI atau air susu ibu adalah sumber makanan utama bagi bayi. ASI mengandung banyak nutrisi penting bagi bayi. ASI mengandung asam amino yang diperlukan untuk proses tumbuh kembang otak bayi. Selain itu, ASI mengandung zat untuk kekebalan tubuh bayi.

Simpulan paragraf di atas adalah ... .
A. ASI adalah sumber makanan utama bagi bayi
B. ASI adalah sumber makanan utama bayi karena mengandung berbagai nutrisi yang penting untuk bayi
C. ASI mengandung zat untuk kekebalan bayi
D. Asam amino diperlukan untuk proses tumbuh kembang otak bayi

5. Bacalah dan tentukan simpulan paragraf berikut!
Meski terlihat mungil dan berukuran kecil, tetapi menanam bonsai cukup sulit. Teknik menanam bonsai sama sekali tidak bisa disepelekan. Sebab, seorang penanam bonsai harus menguasai berbagai teknik perawatan.
Simpulan paragraf di atas adalah ... .A. Teknik menanam bonsai sama sekali tidak bisa disepelekan
B. Bonsai bentuknya mungil dan berukuran kecil
C. Cara menguasai teknik perawatan bonsai cukup sulit
D. Menanam bonsai cukup sulit karena harus menguasai berbagai teknik perawatan

6. Walaupun dianggap sebagai gulma, eceng gondok juga mempunyai manfaat. Eceng gondok dapat dijadikan peluang usaha sebagai bahan dasar kerajinan tangan. Bagian tumbuhan eceng gondok yang sudah dikeringkan ternyata bisa dimanfaatkan sebagai bahan baku pembuatan tas, kopor, sandal, keranjang, tatakan gelas, tikar, dan sebagainya. Akhir-akhir ini eceng gondok juga banyak dimanfaatkan untuk mendukung industri mebel, yakni sebagai pengganti rotan yang harganya semakin melangit.
Simpulan paragraf di atas adalah ....
A. Eceng gondok dimanfaatkan untuk bahan kerajinan tangan dan industri mebelb.
B. Eceng gondok dapat dijadikan bahan kerajinan yang berkualitas tinggi
C. Eceng gondok sebagai pengganti rotan yang harganya semakin melangit.
D. Eceng gondok dibuat tas, kopor, sandal, keranjang, tatakan gelas, dan tikar

c. Kata Kerja (Verba)
Menunjukkan aktivitas objek.
Contoh: berlari, melayang, membeku, menyala.
d. Kata Istilah Bidang Ilmu (Nonfiksi)
Menunjukkan objek ilmiah atau akademis.
Contoh: fotosintesis, erosi, ekosistem, inovasi teknologi.

Cara Mengidentifikasi Latar Berdasarkan Kosakata

a. Latar Tempat
Dicirikan oleh kosakata yang menunjukkan lokasi fisik:

- di hutan, di pantai, di kelas, di kantor, di tepi sungai
- rumah tua, gedung pencakar langit, jalan sempit

b. Latar Waktu
Dicirikan oleh kosakata penanda waktu:

- pagi itu, tengah malam, musim kemarau, saat perang berlangsung
- tahun 2020, pukul 07.00, menjelang magrib

c. Latar Suasana
Dikenali melalui kata sifat atau deskripsi situasi:

- menegangkan, sunyi, riuh, sedih, mencekam, damai
- suasana kacau, perayaan meriah, hening seperti kuburan

Perbedaan Identifikasi dalam Teks Fiksi dan Nonfiksi

Aspek	**Teks Fiksi**	**Teks Non fiksi**
Objek	Tokoh, tempat imajinatif, benda magis	Fakta, fenomena nyata, objek ilmiah
Latar	Bisa nyata atau imajinatif	Selalu nyata dan faktual
Kosakata	Deskriptif, imajinatif, emotif	Objektif, teknis, informatif
Tujuan	Hiburan	Penjelasan atau informasi

Kelompokkan buku-buku tersebut yang termasuk kategori nonfiksi !
A. cerpen, novel, dan komik
B. Biografi, Pidato, dan Buku Pelajaran
C. Novel, biografi dan mitos
D. Pidato, mitos, buku pelajaran

5. Yang termasuk buku fiksi adalah . .
.A. Komik
B. Biografi
C. Buku Pelajaran
D. Makalah

D. Langkah-Langkah Menyusun Kerangka atau Bagan

- Membaca teks secara menyeluruh
- Menentukan ide pokok setiap paragraf
- Menemukan hubungan antarbagian teks
- Mengelompokkan informasi penting
- Menyusun kerangka atau bagan secara runtut
- Menggunakan kata kunci, bukan kalimat panjang

E. Ciri-Ciri Kerangka atau Bagan yang Baik

- Singkat dan jelas
- Memuat ide pokok, bukan rincian berlebihan
- Disusun sesuai urutan teks
- Menggunakan kata atau frasa penting
- Mudah dipahami

F. Contoh Kerangka Berdasarkan Teks

"Banjir merupakan bencana alam yang sering terjadi saat musim hujan. Banjir disebabkan oleh curah hujan tinggi dan buruknya sistem drainase. Dampak banjir antara lain kerusakan rumah dan terganggunya aktivitas masyarakat."

Contoh Kerangka:

- Pengertian banjir
- Penyebab banjir
  - Curah hujan tinggi
  - Drainase buruk
- Dampak banjir
  - Kerusakan rumah
  - Aktivitas masyarakat terganggu

7 Menjelaskan Hubungan Makna Antar Kalimat atau Antar Paragraf dalam Teks

MATERI

Pengertian Hubungan Makna

Hubungan makna antar kalimat atau antar paragraf adalah keterkaitan arti dan fungsi antara satu kalimat dengan kalimat lainnya, atau antara satu paragraf dengan paragraf lainnya, sehingga membentuk teks yang padu, logis, dan mudah dipahami.

Dalam sebuah teks yang baik, setiap kalimat dan paragraf tidak berdiri sendiri, melainkan saling mendukung untuk menyampaikan gagasan utama penulis.

Hubungan penambahan (Adisi)

ubungan ini menunjukkan adanya informasi tambahan terhadap kalimat sebelumnya.
Kata hubung yang sering digunakan: dan, juga, selain itu, bahkan, lagi pula

Contoh:
Sekolah menerapkan program literasi setiap pagi. Selain itu, siswa diwajibkan menulis jurnal membaca setiap minggu
.
Kalimat kedua berfungsi menambahkan informasi dari kalimat pertama.

Hubungan Pertentangan

Hubungan ini menunjukkan adanya perbedaan atau pertentangan dengan kalimat sebelumnya.

Kata hubung yang sering digunakan: tetapi, namun, akan tetapi, sebaliknya

Contoh:
Banyak siswa menyukai pelajaran olahraga. Namun, tidak semua siswa aktif mengikuti kegiatan tersebut.

Kalimat kedua menyanggah sebagian isi kalimat pertama.

SUPER SOAL BAB 7

Teks untuk soal Nomor 1 - 10

Banyak siswa menganggap membaca sebagai kegiatan yang membosankan. Padahal, membaca memiliki peran penting dalam meningkatkan wawasan dan kemampuan berpikir kritis. Dengan membaca, siswa dapat memahami berbagai sudut pandang serta melatih kemampuan menganalisis informasi.

Namun, minat baca siswa di Indonesia masih tergolong rendah. Hal ini disebabkan oleh beberapa faktor, seperti kurangnya kebiasaan membaca sejak dini dan dominasi penggunaan gawai untuk hiburan. Oleh karena itu, diperlukan peran sekolah dan keluarga untuk menumbuhkan budaya literasi.

Salah satu upaya yang dapat dilakukan adalah menyediakan bahan bacaan yang menarik dan sesuai usia. Selain itu, kegiatan literasi perlu dikemas secara kreatif agar siswa merasa tertarik. Dengan demikian, membaca tidak lagi dianggap sebagai kewajiban, melainkan sebagai kebutuhan.

Soal 1
Hubungan makna antara kalimat pertama dan kedua pada paragraf pertama teks tersebut adalah ....
A. Pertentangan
B. Penambahan
C. Sebab–akibat
D. Perbandingan

Soal 2
Kalimat "Padahal, membaca memiliki peran penting dalam meningkatkan wawasan dan kemampuan berpikir kritis" berfungsi untuk ....
A. Menyimpulkan paragraf
B. Menjelaskan gagasan sebelumnya
C. Menyatakan akibat
D. Memberikan contoh

Soal 3
Hubungan makna antara paragraf pertama dan paragraf kedua adalah ....
A. Penjelasan ke pertentangan
B. Sebab ke akibat
C. Perbandingan ke penjelasan
D. Simpulan ke penegasan

Soal 4
Kata hubung "Oleh karena itu" pada paragraf kedua menunjukkan hubungan makna ....
A. Penambahan
B. Pertentangan
C. Sebab–akibat
D. Perincian

Soal 5
Paragraf ketiga dalam teks berfungsi sebagai ....
A. Penjelasan sebab
B. Pertentangan gagasan
C. Solusi dan simpulan
D. Ilustrasi masalah

TRY OUT PAKET 1

Cairan itu tumpah membasahi lantai. Kulit kaki Ani sedikit terciprat. Beruntung, cairan malam itu tinggal sedikit. Meskipun sedikit, cipratan itu sudah cukup untuk membuat Ani menangis terisak. Nenek yang sedang berada tidak jauh dari situ bergegas menolong Ani.
Setelah mengobati luka Ani, nenek berkata, "Ani, membatik itu butuh kesabaran dan ketekunan. Untuk menghasilkan batik yang bagus, kita tidak bisa mengerjakannya dengan buru-buru. Kita harus bisa menikmati proses membatik." Dengan rasa bersalah, Ani menjawab, "Maaf, Nenek. Tadi, aku tidak sabar ingin segera menyelesaikannya. Aku juga memaksakan diri untuk tetap membatik meskipun sudah lelah. Jadinya, aku malah menumpahkan malam."
Nenek pun memeluk Ani. Dalam dekapan nenek, Ani berjanji untuk lebih bersabar ketika membatik. Dia akan berusaha untuk menikmati setiap prosesnya. Ya, tak ada batik yang berkualitas jika tidak dibuat dengan penuh kesabaran dan ketekunan.

Nenek menggoreskan tetes-tetes cairan coklat kental pada secarik kain putih. Dari mana tetes-tetes cairan itu berasal?

Melihat Ani menangis terisak karena terkena cairan malam, nenek langsung menolong Ani. Nenek kemudian menasihati Ani dan memeluk tubuh Ani.

Soal 1

Bagaimana sifat nenek yang tergambar dalam kutipan dan isi cerita tersebut?

Klik pada pilihan Benar atau Salah untuk setiap pernyataan berdasarkan teks!

Penyataan	Benar	Salah
Nenek adalah sosok yang penyayang.		
Nenek sosok yang pekerja keras.		
Nenek memiliki sifat yang sangat sabar.		
Nenek memiliki sifat yang sangat sabar.		

TRY OUT PAKET 1

Soal 3
Contoh Soal TKA B.Indonesia SMP/MTs
Keistimewaan tokoh pada teks tersebut adalah....
(A) Membantu ibunya berjualan
(B) Pemenang world Press Photo
(C) Melakukan pemotretan berkali-kali
(D) Mencari barang rongsokan di pantai.

Soal 4
Sikap/tindakan tokoh yang patut diteladani pada teks tersebut adalah....
(A) Ia rajin dan gemar menabung
(B) Ia gemar menabung dan disiplin
(C) Ia rajin dan tidak mudah putus asa
(D) Ia tidak mudah putus asa dan hemat

Soal 5
Pendapat penulis terhadap tokoh pada teks tersebut adalah....
(A) Mertayani memiliki foto sederhana dan menjadi pemenang
(B) Mertayani meminjam kamera foto Mrs. Dolly amarhoseija
(C) Mertayani membantu ibunya berjualan setelah pulang sekolah
(D) Mertayani melakukan pemotretan yang berkali-kali ternyata tidak sia-sia

Cermati cuplikan biografi berikut!
"walaupun kalah, saya tetap bangga bisa menjadi bagian dari sejarah tenis Indonesia dan bisa bertanding melawan Boris Becker."
Kata-kata itu dilontarkan Wailan Mike Donald Walalangi, mantan petenis nasional, ketika menceritakan salah satu pengalaman yang berkesan selama menjadi atlet tenis nasional. Berpasangan dengan Suharyadi, ia turun di grup dunia piala Davus 1989. Tidak tanggung-tanggung ketika itu ia melawan ganda jerman, Boris Becker / Eric Jelen. Kendati kalah 2-6, 4-6, 1-6 dan tim indonesia dihajar 5-0, Wailan tak hilang semangat. Sebaliknya, ia bangga akan pencapaiannya tersebut, Putra Tondano, Sulut yang besar di Sorong Papua ini mengulang sejarah dengan membawa indonesia tampil di grup dunia piala davis. Sebelum prestasi tampil di grup dunia pernah dicatat tahun 1983.

Soal 6
Tindakan yang dapat diteladani dari tokoh tenis Wailan Walalangi dalam kutipan biografi tersebut adalah....
(A) Bangga dapat menjadi lawan bertanding petenis dunia.
(B) Menjadi atlet tenis nasional yang turun di grup Piala Davis
(C) Bangga dapat mengulang prestasi indonesia yang pernah dicapai tahun 1983
(D) Tetap bersemangat dan bangga meskipun kalah bertanding

TRY OUT PAKET 1

Soal 9

Cermatlah kalimat-kalimat berikut!

1. Pada 17 Agustus 1945, tak lama setelah Jepang takluk kepada Sekutu, atas desakan para aktivis pemuda yang menculik Soekarno ke Rengas Dengkok, Soekarno dan Hatta mengproklamasikan kemerdekaan Indonesia.
2. Sehari kemudian Soekarno-Hatta diangkat menjadi Presiden dan wakil Presiden Pertama Indonesia.
3. Pada masa itu Soekarno-Hatta pernah dibuang kembali ke Parapat dan Bangka.
4. Mereka segera terlibat dalam perjuangan melawan pendudukan kembali oleh Belanda
5. Namun, ketika secara resmi Belanda mengakui kedaulatan Indonesia pada 1949, kedudukan Soekarno sebagai presiden dipulihkan.

Urutan kalimat-kalimat tersebut agar menjadi teks biografi yang baik adalah....

(A) (1), (2), (3), (4), (5)
(B) (1), (2), (4), (3), (5)
(C) (1), (4), (2), (3), (5)
(D) (1), (4), (3), (2), (5)

Soal 10

Bacalah kutipan cerita berikut!

Walaupun tugasnya sangat ringan dibandingkan dengan tugas yang dikerjakan sepasang kerbau, sang roda berciut-ciut dan mengeluarkan keluhan di sepanjang belokan. Kerbau yang malang menarik kereta melalui lumpur akhirnya tak tahan mendengar keluhan sang roda. "Diamlah, apa yang kalian keluhkan dengan begitu keras? Kami yang bekerja keras menarik segala beban saja tak pernah mengeluh."

Komentar terhadap isi teks tersebut adalah....

(A) Isi cerita sering terjadi pada kehidupan kita, yaitu selalu percaya diri bila mendapat tugas.
(B) Dilihat dari tokohnya, roda kereta merupakan tokoh protagonis karena sifatnya yang kurang baik.
(C) Isi cerita sulit diwujudkan dalam kehidupan karena orang kota lebih bersifat individualis.
(D) Sikap sepasang kerbau patut kita tiru karena dalam bekerja tak pernah mengeluh.

TRY OUT PAKET 1

Nilai moral pada kutipan cerita tersebut adalah....
(A) Dani menjawab pertanyaan ayah, satu per satu.
(B) Dani mulai berpikir ayah pasti mempermainkannya
(C) Hatinya tersentuh melihat pengemis di jalan itu.
(D) Ayah merogoh kantongnya, memberikan sejumlah uang.

Soal 13
Bacalah kutipan cerita berikut!
"pengawal, panggil anak-anak!" perintah Raja singa. Tak lama kemudian anak-anak singa sudah berkumpul di hadapan ayah mereka. "Putraku, ini Raja Cacing Kincir Angin, ceritakanlah yang kalian alami," terdengar suara Raja Singa bagai halilintar. "waktu itu, aku dan adik-adik sedang bermain di bawah pohon kasturi. Ketiga adk sedang berbaring di atas rumput, kakinya seperti digelitik, setelah digaruk-garuk tanahnya ternyata segerombolan cacing sedang menuju keluar permukaan tanah." Jelas si sulung dengan raut wajah yang jijik. Mulai kerjadian itu, Raja Singa mengusir warga cacing dari Negeri Kincir angin walaupun telah meminta maaf.

Nilai moral pada kutipan cerita tersebut adalah.....
(A) Siapa yang kuat, diadalah yang berkuasa
(B) Kita boleh memberikan hukuman agar tidak terulang lagi.
(C) Keputusan apa pun harus diambil dengan kepala dingin
(D) Memutuskan sesuatu dilandasi oleh perasaan suka dan tidak suka.

Soal 14
Bacalah teks berikut!
Rendy sejak kecil merupakan kesayangan keluarganya. Dia selalu mendapat dukungan dari keluarganya dalam segala hal. Dia dikenal anak yang selalu ingin menang. Di sekolah dia menggemari sepakbola. Dalam pikirannya banyak akal agar dapat bermain bola. Jika tidak menemukan bola, ia akan membuat bola dari gulungan kaos kaki teman-temannya. Setiap hari Rendy mempunyai ide kreatif agar dapat bermain bola. Rutinitas Rendy terbawaa hingga remaja. Akhirnya, di usia remaja ia mendapatkan presttasi yang luar biasa. Bahkan menjadi siswa yang terkenal di sekolahnya.

Kebiasaan positif tokoh cerita tersebut yang tepat adalah....
(A) Selalu menang dalam bertanding
(B) Membuat bola dari kaos kaki
(C) Rajin berlatih sepakbola
(D) Banyak ide kreatif

TRY OUT PAKET 1

Soal 17

Pak Hamid pun bertanya-tanya kepada tetangganya itu, bagaimana caranya bisa cepat kaya tanpa harus bersusah payah. Tetangganya itu pun memberi tahu bagaimana cara mendapatkan kekayaan dengan mudah dan tidak bersusah payah. Malam harinya Pak Hamid pergi ke makam keramat yang ditunjukkan oleh tetangganya itu. Pak Hamid pun tampak menyembah-nyembah makam tersebut sambil berkomat-kamit membaca mantra. Entah mantra apa yang dibacanya, kelihatannya panjang sekali dan membutuhkan waktu lama untuk menyelesaikan mantra itu. Pak hamid pulang dengan wajah berseri-seri, dia yakin akan mendapatkan kekayaan sebentar lagi.

Pesan berdasarkan kutipan cerpen tersebut adalah ...

(A) Tak mungkin orang mendapatkan kekayaan hanya dengan membaca mantra di kuburan.

(B) Setiap usaha pasti ada hasilnya, meskipun usaha itu tidak masuk akal.

(C) Orang yang mau mencari harta tanpa kerja keras tidak akan berhasil

(D) Siapa pun berhak melakukan usaha demi yang diinginkan.

Soal 18

Bacalah kutipan berikut!

Motorku melaju dengan cepat, suara ayah dan bundaku masih saja terdengar di telingaku. Aku melewati tikungan yang jalannya licin sehingga aku tergelincir. Motorku, masih di atas tapi badanku jatuh ke bawah, seperti masuk jurang. Tidak begitu dalam tetapi sulit untukku nai ke atas karena jurang itu bersudut 90. Aku sungguh takut, aku menangis. Di sini sangat gelap, gelap sekali.

Keunggulan kutipan cerita tersebut adalah....

(A) Akhir cerita mengejutkan sehingga memberikan kesan mendalam

(B) Isi ceritanya menginspirasi pembaca untuk berhati-hati

(C) Banyak menggunakan kiasan

(D) Akhir cerita mudah ditebak oleh pembaca

TRY OUT PAKET 1

Soal 20

Semalam Fajar tidak bisa tidur karena memikirkan kebohongannya dengan dua temannya, yaitu Novita dan Indri. Padahal mereka berdua sangat percaya kepada Fajar.

Keesokan paginya Fajar bermaksud minta maaf kepada keduanya, "teman-teman aku minta maaf karena aku takut kalian akan menjauhi aku jika aku bukan anak orang kaya seperti kalian. Padahal orang tuaku hanyalah seorang sopir angkot dan ibuku hanya pembantu rumah tangga. "iya, ga pa pa ..... aku sudah tahu kok. Lain kali jangan bohong lagi ya ..... tersiksa kan?

Nilai kehidupan positif dalam kutipan cerpen di atas adalah....

(A) Pengorbanan seorang sahabat terpercaya

(B) Seseorang yang segera sadar akan kesalahannya

(C) Kebohongan yang akhirnya terkuak.

(D) Sesorang yang tersiksa akibat kelakuannya.